Website: iraqedu.net Telegram: @SadsHelp Bot: @EDIRQBot

اللجنة الدائمة للامتحانات العامة
جمهورية العراق – وزارة التربية
الدراسة : الإعدادية / العلمي (الأحيائي)
الدور الأول ١٤٤١هـ - ٢٠٢٠م
المادة : الأحياء
الوقت : ثلاث ساعات

ملاحظة : أجب عن خمسة أسئلة فقط ولكل سؤال ٢٠ درجة .

س١ : أ) عرّف أربعاً ممّا يأتي : (١٢ درجة)
التناضح ، النفاذ الجيني ، الخلية البلازمية ، الإخصاب المزدوج ، الخلايا البينية .
ب) ما نتائج التضريب الإختباري لنبات بزاليا طويل الساق ؟ (٤ درجات)
جـ) ارسم مع التأشير واحداً ممّا يأتي : ١) نسيج ظهاري مكعب بسيط . ٢) الشرب الخلوي . (٤ درجات)

س٢ : أ) املأ الفراغات بما يناسبها لأربع من العبارات الآتية : (٨ درجات)
١) يتألف المتك من فصين يربط بينهما ..... وكل فص يتألف من ردهتين يطلق على كل منهما ..... .
٢) الثالوس الأولي تركيب قلبي الشكل يحمل ..... وهي حافظات مشيجية أنثوية و ..... وهي حافظات مشيجية ذكرية .
٣) يتركب جدار الخلية من ثلاث طبقات هي الصفيحة الوسطى و ..... و ..... .
٤) المجموعة الكروموسومية للنطفة ..... وللجسم القطبي الثاني ..... .
٥) تتخذ النواة موقعاً مركزياً كما في ..... أو موقعاً جانبياً كما في ..... .
ب) اذكر ميزتين لثلاث ممّا يأتي : (٦ درجات)
١) قناة البيض في الضفدع ٢) الخلية المستلمة ٣) الأرومة الليفية ٤) الألياف الصفر .
جـ) ارسم مع التأشير تركيب الغشاء البلازمي في الخلية حقيقية النواة . (٦ درجات)

س٣ : أ) قارن بين : (أجب عن اثنين فقط) . (١٢ درجة)
١) الرايبوسومات والكروموسومات . ٢) الطور البوغي والطور المشيجي .
٣) الجهاز التناسلي الذكري لدودة الأرض والجهاز التناسلي الذكري للحشرات .
ب) عيّن موقع وأهمية أربع ممّا يأتي : (٨ درجات)
النسيج الضام المخاطاني ، قنوات فولكمان ، الهستامين ، الحوصلة المنوية للبلاناريا ، الأقراص البينية ، قناتي فالوب .

س٤ : أ) علل أربعاً ممّا يأتي : (١٢ درجة)
١) تتمثل الوظيفة الأساسية للنسيج الكولنكيمي بالدعم والتقوية .
٢) تفقد الفايروسات القدرة على التكاثر والنمو خارج الخلايا .
٣) ظهور عجول غبارية من تزاوج ثور أحمر مع بقرة بيضاء .
٤) يعتقد أن النباتات الأرضية انحدرت من أنواع من الطحالب الخضر .
٥) يُكثّر النخيل بالفسائل .
ب) أعطِ مثال واحد لأربع ممّا يأتي : (٤ درجات)
تكيف النباتات لبيئات جديدة ، تحول شكلي ، تكاثر بالمدادات ، سيادة غير تامة ، تركيب يساهم في بناء السليلوز .
جـ) ارسم مع التأشير التكاثر اللاجنسي في البكتريا (الانشطار الثنائي) . (٤ درجات)

س٥ : أ) ضُرّب خنزير غيني خشن الشعر أسود اللون بأنثى خشنة الشعر بيضاء اللون فأنجبا عدد من الولادات موزعة كالآتي $\frac{٣}{٨}$ خشن اسود ، $\frac{٣}{٨}$ خشن أبيض ، $\frac{١}{٨}$ ناعم أسود ، $\frac{١}{٨}$ ناعم أبيض ، فما الطرز الوراثية للأبوين والأفراد الناتجة ؟ علماً أن صفتي خشونة الشعر واللون الأسود سائدتان . (١٢ درجة)
ب) عدّد فقط : (الإجابة عن أولاً أو ثانياً) : (٤ درجات)
أولاً : أنواع الأنسجة الظهارية المطبقة . ثانياً : أنواع الخلايا العصبية تبعاً لعدد البروزات .
جـ) اشرح الانقسام الثنائي الطولي في اليوغلينا . (٤ درجات)

س٦ : أ) حدّد المسؤول عن ثلاث ممّا يأتي : (٦ درجات)
جسر الاقتران في البكتريا ، إفراز هرمون البروجسيترون خلال الأشهر الأخيرة من الحمل ، تحويل الإستالديهايد إلى كحول أثيلي ، حفظ التوازن المائي في الطليعيات ، التليف الحوصلي .
ب) ما الطراز الوراثي لأربع ممّا يأتي ؟ (٨ درجات)
حنك السبع وردي الأزهار ، شخص سليم من فقر الدم المنجلي ، نبات القرع ذو ثمار خضراء ، Rh^- ، أرنب هيمالايا نقي .
جـ) عدّد أجزاء المدقة ، واذكر وظيفة كل جزء منها . (٦ درجات)

@sadshelp



"شبكة تعليمية تهدف الى توفير جميع الاحتياجات الدراسية للطلاب في جميع انحاء العراق"

iraqedu.net @sadshelp

قناة تعليمية تقدم لكم

- الكتب المنهجية
- الملازم الدراسية
- الملازم الوزارية
- المراجعات المركزة
- الامتحانات - الاختبارات
- الملخصات
- الاخبار الموثوقة
- التحفيزات - النصائح
- نسخ الأسئلة الوزارية مع الأجوبة النموذجية

امسح الباركود من هنا
للانضمام الينا ليصلك
كل جديد

iraqedu.net @sadshelp

@sadshelp

شبكة المساعد
@SadsHelp

شـبكة تعليمية تهدف الى توفير جميـع الاحتياجات
الدراسـية للـطلاب فـي جميـع انحـاء العـراق

iraqedu.net @sadshelp

بوت المساعد التعليمي

الكتب المنهجية - الملازم الدراسة - الملازم الوزارية - المراجعات المركزة
نسخ الاسئلة الوزارية مع الاجوبة النموذجية

Bot: @EDIRQBot

Website: iraqedu.net
Telegram: @SadsHelp
Bot: @EDIRQBot

مركز قابلية الاعدادية

الاجوبة النموذجية للدراسة الاعدادية للعام الدراسي ٢٠١٩ / ٢٠٢٠ — الدور / الاول

اسم المادة / الأحياء — الفرع / الاحيائي

جواب السؤال (الأول) فرع (أ)

السؤال	الصفحة	الجواب النموذجي	الدرجة
١-	ص ٧٧	عرف اربعة مما يأتي : التناضح / هو حركة جزيئات الماء خلال غشاء اختياري النفاذية (الغشاء البلازمي) تبعاً لاختلاف التركيز وتتم حركة جزيئات الماء وفق قانون الانتشار اذ ان التناضح هو حالة من حالات الانتشار .	١٢ درجة لكل تعريف ثلاث درجات
٢-	ص ٦٧	النفاذ الجيني / هو احتمالية فرد يرث ألية ما ويمتلك الطراز المظهري الذي له علاقة بتلك الية. مثل الكيف الحوصلي (ذو نفاذية تامة) او تعيد الصبغ (ذو نفاذية غير تامة) ملاحظة / اذا لم يذكر الطالب المثال لا يحاسب عليه	
	ص ٦٦	الخلية البلازمية / هي خلية كروية شكل او بيضوية صغيرة الحجم نسبياً ونواتها لامركزية الموقع وتظهر المادة الكروماتينية فيها مرتبة شعاعياً بما يشبه وجه الساعة او عجلة العربة ويكون سايتوبلازم الخلية متجانس . وتكون مسؤولة عن تكوين الاجسام المضادة وتلعب دوراً مهماً في حماية الجسم من الاصابات .	
		تواقيع أعضاء اللجنة	

https://www.tiptopdemy.com/

Website: iraqedu.net
Telegram: @SadsHelp
Bot: @EDIRQBot

رقم الصفحة ٤

مركز فحص الاعدادية

الاجوبة النموذجية للدراسة الاعدادية للعام الدراسي ٢٠١٩ / ٢٠٢٠

الدور / الاول

اسم المادة / الاحياء

الفرع / الاحيائي

جواب السؤال (الاول) فرع (ع)

السؤال	الصفحة	الجواب النموذجي	الدرجة
		الاخصاب المزدوج / هو عملية اتحاد نواة احد الخليتين الذكريتين (او اتحاد احد الخليتين الذكريتين) مع خلية البيضة (ام) مكونة بيضة منضبة او زيجة (سبورة) واتحاد (نواة) الخلية الذكرية الثانية مع النواتين القطبيتين مكونة نواة السويداء وهو يمثل أحد سمات ومميزات النباتات الزهرية.	
	١٢٧ هـ	الخلايا البينية / هي خلايا غير متمايزة يمكن ان تتمايز لتكوين أي نوع من الخلايا عند الحاجة وتوجد في جدار جسم الهايدرا.	
		ملاحظة / اذا كتب الطالب تكوّن الخمل والمبايض تعتبر الاجابة صحيحة.	
		تواقيع أعضاء اللجنة	

Website: iraqedu.net
Telegram: @SadsHelp
Bot: @EDIRQBot

رقم الصفحة

الاجوبة النموذجية للدراسة الاعدادية للعام الدراسي ٢٠١٩ / ٢٠٢٠

الدور / الاول

اسم المادة / الاحياء

الفرع / الاحيائي

جواب السؤال (الاول) فرع (ب)

السؤال	الصفحة	الجواب النموذجي	الدرجة
ثالثاً		ما نتائج التهجين الاختباري لنبات بزاليا طويل الساق	٤ درجات
		نبات طويل الساق نقي X ؟ نبات قصير الساق	
		P_1 tt انعزال الصفات TT	
		G_1 (t) (T)	لكل تهجين درجتان
		F_1 Tt	
		١٠٠% نباتات طويل الساق هجينة	
		نبات طويل الساق هجين X ؟ نبات قصير الساق	
		P_1 tt انعزال الصفات Tt	
		G_1 (t) (T) (t)	
		F_1 Tt , tt	
		٥٠% طويل الساق هجين ، ٥٠% قصير الساق	

تواقيع أعضاء اللجنة

Website: iraqedu.net
Telegram: @SadsHelp
Bot: @EDIRQBot

رقم الصفحة ٤

مركز [illegible] عدادية


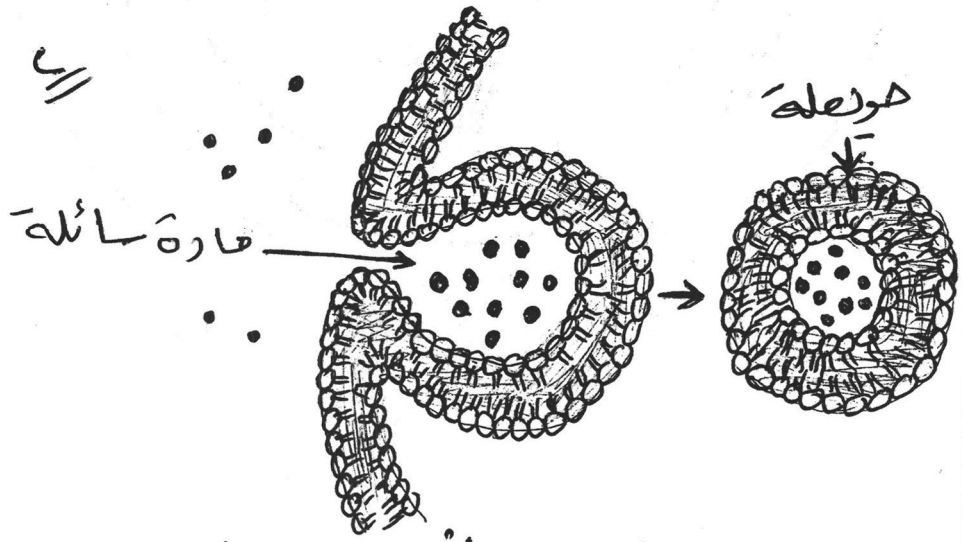
الاجوبة النموذجية للدراسة الاعدادية للعام الدراسي ٢٠١٩ / ٢٠٢٠

الدور / الاول

اسم المادة / ...العلوم...

الفرع / العلمي الادبي

جواب السؤال (الاول) فرع (ج ١ ، ٢)

السؤال	الصفحة	الحلول النموذجي	الدرجة
الاول فرع ج ١ ملاحظة ان حالة ترك احدهما تعتبر اجابة صحيحة	ص ٦٠	ارسم مع تأشير واحد مما يأتي :  « النسيج الظهاري المكعبي البسيط » شكل (2-8) ص ٥٠	٤ درجات ٢ درجة للشكل ٢ درجة للتأشير
فرع ج ١ ، ٢	ص ٢٩	 « محلية الشرب المحلول » شكل (1-21) ص ٢٩	٤ درجات للشكل ٣ والتأشير ١
		ملاحظة الاجابة عن سؤال واحد فقط	

تواقيع أعضاء اللجنة

Website: iraqedu.net
Telegram: @SadsHelp
Bot: @EDIRQBot

رقم الصفحة ٥

مركز [illegible] الاعدادية

الاجوبة النموذجية للدراسة الاعدادية للعام الدراسي ٢٠١٩ / ٢٠٢٠

الدور / الاول

اسم المادة / الاحياء

الفرع / الاحيائي

جواب السؤال (الثاني) فرع (م)

السؤال	الصفحة	الجواب النموذجي	الدرجة
س ٤		املأ الفراغات بما يناسبها لاربع من العبارات	لكل نقطه درجتان ولكل فراغ درجه واحده
	ص ١٠٩	١- نسيج حشوي (رابط) كيس اللقاح	
	ص ١١٠	٢- اركيكونات أنثريديات	
	ص ١١٢	٣- الجدار الابتدائي الجدار الثانوي	
	ص ١١٩-١٢٠	٤- (س) كروموسوم او (احادي المجموعه الكروموسومية) احادي المجموعه الكروموسومية (س)	
	ص ١٢٤	٥- الخلايا الجنسيه الافرازيه كالخلايا الدهنيه والمخاطيه	يكتفى بذكر مثال واحد
		تواقيع أعضاء اللجنة	

Website: iraqedu.net Telegram: @SadsHelp Bot: @EDIRQBot

رقم الصفحة ٦

مركز فلان الاعدادية

الاجوبة النموذجية للدراسة الاعدادية للعام الدراسي ٢٠١٩ / ٢٠٢٠ الدور / الاول

اسم المادة / الاحياء الفرع / الاحيائي

جواب السؤال (الثاني) فرع (ب)

السؤال	الصفحة	الجواب النموذجي	الدرجة
س	ص ١٢٦	ب/ اذكر ميزتين لثلاث مما يأتي :- ① قناة البيض في الضفدع / أ- انبوب غدي ابيض طويل وملتوي ب- لا تتصل اتصالاً "مباشراً" بالمبيض ج- النهاية الامامية لكل قناة بيض تشكل ترقوياً قمعياً ذا فتحة مهدبة د- لبطانة قناتي البيض غدد تفرز غطاء البومين حول البيوض اثناء مرورها في القناة . هـ- النهاية الخلفية لكل قناة بيض تتوسع لتكون كيس البيض و- تفتح قناتا البيض بفتحتين منفصلتين في جدار المجمع .	٦ درجات لكل نقطه درجتان ملاحظه / لكل نقطه يكتفى بعنصر واحد
	ص ٩٦	② الخليه المستلمه / أ- لا تحتوي على عامل الخصوبه ب- لا تحتوي على اهلاب الاقران ج- تكون بمثابة خليه انثويه د- احادية المجموعه الكروموسومية . هـ- تغير ترتيبها الوراثي بعد عملية الاقران . و- القطعه الكروموسومه المنتقله لا تزيد من حجم الكروموسوم الموجود فيها اصلاً .	يكتفى بنقطتان فقط

تواقيع أعضاء اللجنة

Website: iraqedu.net
Telegram: @SadsHelp
Bot: @EDIRQBot

مركز فحص الاعدادية

الاجوبة النموذجية للدراسة الاعدادية للعام الدراسي ٢٠١٩ / ٢٠٢٠ — الدور / الاول

اسم المادة / الاحياء — الفرع / الاحيائي

جواب السؤال (الثاني) فرع (ب)

السؤال	الصفحة	الجواب النموذجي	الدرجة
س ٢	ص ٦٦	③ الاوعيه اللمفيه/ أ- اكثر الخلايا شيوعاً في النسيج الضام. ب- كبر حجمها وبروزاتها الطويله التي تكون متفرده ج- تبدو في مظهرها الجانبي مغزلية الشكل. د- نواتها بيضويه كبيره وسايتوبلازم الخليه يكون متجانساً.	يكتفى بنقطتان فقط. درجتان فقط
	ص ٦٧	④ الالياف الصفر/ أ- يسمح بالاصفر للونه الاصفر في حالة الطراوه ب- يوجد بهوره مفرده ولا تشكل حزماً وتتفرع الالياف الصفر وتكون مرنه سهله التمدد ولكنها ليست قويه كقوة الالياف البيض.	درجتان فقط

تواقيع أعضاء اللجنة

Website: iraqedu.net
Telegram: @SadsHelp
Bot: @EDIRQBot

٨
رقم الصفحة

مركز الامتحانات الوزارية والاعدادية

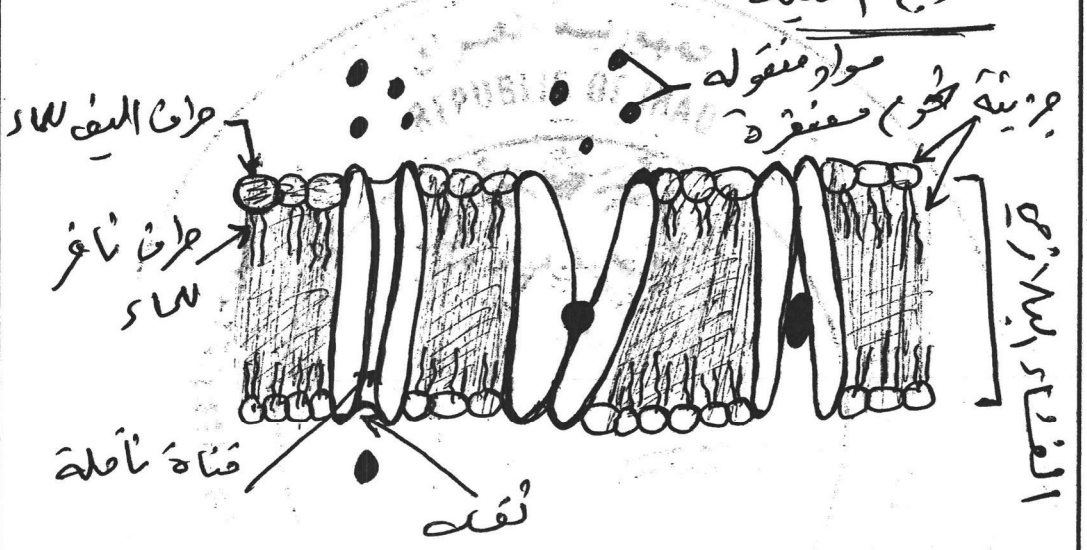
الاجوبة النموذجية للدراسة الاعدادية للعام الدراسي ٢٠١٩ / ٢٠٢٠ م

الدور / الاول

اسم المادة / الاحياء

الفرع / الاحيائي

جواب السؤال (الثاني) فرع (ج)

السؤال	الصفحة	الجواب النموذجي	الدرجة
س٢ فرع ج	ص ١٤	ج/ أرسم مع التأشير تركيب العشاء البلازمي في الخلية حقيقية النواة . خارج الخلية  داخل الخلية « تركيب العشاء البلازمي في خلية حقيقية النواة » شكل (١-٦) ص ١٤ ملاحظة : الكتف الصحيح بدلاً من تأشير شكل	٦ درجات ٢ درجة للشكل ٢ درجة للتأشير

توقيع أعضاء اللجنة

Website: iraqedu.net
Telegram: @SadsHelp
Bot: @EDIRQBot

رقم الصفحة ٩

الاجوبة النموذجية للدراسة الاعدادية للعام الدراسي ٢٠١٩ / ٢٠٢٠

الدور / الاول

اسم المادة / الاحياء

الفرع / العلمي

جواب السؤال (الثالث) فرع (أ)

السؤال	الصفحة	الاجوبة النموذجية		الدرجة
		الرايبوسومات	الكروموسومات	
٣	ص ١١ ص ١٥ ص ٤٤	١- توجد في السايتوبلازم على سطح الشبكة البلازمية الداخلية الخشنة في الخلايا حقيقية النواة أو تكون منتشرة في سايتوبلازم الخلية بدائية النواة ٢- مسؤولة عن تكوين البروتينات ٣- تكون النوية ٤- كثيرة العدد (غير محدودة العدد) ٥- حبيبات صغيرة	١- توجد داخل النواة في حقيقية النواة او المنطقة النووية في بدائية النواة وضمن الشبكة الكروماتينية ٢- تحمل المورثات (الجينات) التي يتم بواسطتها نقل الصفات الوراثية من جيل الى آخر (تلعب دوراً في الوراثة والتكاثر والتباين والطفرات وغيرها) ٣- تنشأ من الشبكة الكروماتينية ٤- العدد ثابت لكل نوع من الاحياء ٥- تراكيب عصوية الشكل في الغالب (تركيب خيطي الشكل)	٦ درجة لكل فقرة ٣ درجات

يكتفى بثلاث نقاط فقط
وكل نقطة درجتان

تواقيع أعضاء اللجنة

Website: iraqedu.net
Telegram: @SadsHelp
Bot: @EDIRQBot

رقم الصفحة

مركز [illegible] عدادية

الاجوبة النموذجية للدراسة الاعدادية للعام الدراسي ٢٠١٩ / ٢٠٢٠ الدور / الاول

اسم المادة / الاحياء الفرع / العلمي / الاحيائي

جواب السؤال (الثالث) فرع (أ)

السؤال	الصحة	الجواب النموذجي		الدرجة
		الطور البوغي	الطور المشيجي	
٣	١,٣ ص	١- طوراً لاجنسياً	١- طوراً جنسياً	٦ درجات
		٢- خلايا ثنائية المجموعة الكروموسومية ٢ س	٢- خلايا احادية المجموعة الكروموسومية ١ س	
		٣- عند النضج تعاني الخلية الام للابواغ محلية انقسام اختزالي وتكون الابواغ احادية المجموعة الكروموسومية (١ س)	٣- عند النضج يعاني الطور المشيجي انقساماً خيطياً وينتج اعشاجاً ذكرية وأنثوية احادية المجموعة الكروموسومية ١ س	
		٤- يكون اكبر حجماً من الطور المشيجي في النباتات الارضية	٤- يكون أصغر حجماً في النباتات الارضية	
		٥- يبدأ بعد الاخصاب وتكوين الزيجة ٢ س وينتهي بالانقسام الاختزالي وتكوين الابواغ ١ س أو ينشأ الطور البوغي من نمو الزيجة	٥- يبدأ بالانقسام الاختزالي وتكوين الابواغ ١ س وينتهي بالاخصاب وتكوين الزيجة ٢ س أو ينشأ الطور المشيجي من الابواغ	

ملاحظة / يكتفى بثلاث نقاط فقط

تواقيع أعضاء اللجنة

Website: iraqedu.net
Telegram: @SadsHelp
Bot: @EDIRQBot

رقم الصفحة ١١

مركز ... الاعدادية

الاجوبة النموذجية للدراسة الاعدادية للعام الدراسي ٢٠١٩ / ٢٠٢٠ الدور / الاول

اسم المادة / احياء الفرع / العلمي / احياء

جواب السؤال (الثالث) فرع (أ)

السؤال	الصفحة	الجواب النموذجي		الدرجة
		الجواب / تناسلي الذكري لدودة الارض	الجواب / تناسلي الذكري للحشرات	
٣	١٣٠ ص و ١٣٣ ص	١- زوجان من الحصى الصغيرة يقعان في الحلقتين (١٠ ، ١١)	١- خصيتان تقعان فوق القناة الهضمية او على جانبها	٦ درجات
		٢- زوجان من الاعضاء المنوية يقعان قرب كل خصية	٢- لا يحتوي على اعضاء منوية	
		٣- زوج من الاقنية الناقلة للحيامن تمتد الى الحلقة ١٥	٣- زوج من الاقنية الناقلة للحيامن التي تتصل من مقدمها بالخصية ومن مؤخرها بالحوصلة المنوية	
		٤- تحط الخصى والاعضاء المنوية والاقنية للحيامن لكل جانب ثلاثة حويصلات منوية (يكون المجموع ثلاثة ازواج من الحويصلات المنوية للجانبين)	٤- حويصلتان منويتان تمثل كل منهما منطقة متسعة من القناة الناقلة في كل جانب	يكتفى بثلاث نقاط
		٥- لا توجد قناة قاذفة	٥- تتحد القناتان الناقلتان للحيامن لتكون القناة القاذفة	
		٦- لا يحتوي على قضيب	٦- يوجد قضيب يمثل امتداداً للقناة القاذفة	
		٧- زوج من الفتحات التناسلية على جانبي السطح البطني للحلقة ١٥	٧- فتحة تناسلية واحدة تقع في نهاية القضيب	
		٨- لا توجد غدد مساعدة	٨- توجد غدتان مساعدتان تقعان عند بداية القناة القاذفة	

تواقيع أعضاء اللجنة

Website: iraqedu.net
Telegram: @SadsHelp
Bot: @EDIRQBot

رقم الصفحة

مركز الامتحانات العامة

الاجوبة النموذجية للدراسة الاعدادية للعام الدراسي ٢٠١٩ / ٢٠٢٠

الدور / الاول

اسم المادة / الاحياء

الفرع / العلمي / الاحيائي

جواب السؤال (الثالث) فرع (ب)

السؤال	الصفحة	الجواب النموذجي			الدرجة
		عينان موقع واهميته اربع حالات			١٨ درجات لكل تفصيلة درجتان
		التركيب	الموقع	الوظيفة	
	٦٩ ص	الشبيه بقام الخاطئ	الجهاز البولي الذكري	الاسناد	
	٧٢ ص	قنوات فولكمان	العظم الكعبة	ربط عضلات هاكرس مع بعضها	
	٦٧ ص	الهستامين	الخلية البدينة	١- تفاعل الخلايا المناعية في الحساسية الفورية او توسع الشعيرات الدموية من اجل زيادة القابلية النفوذية	
	١٠٩ ص	الوصلة العنوية للبلازميا	عند قاعدة القضيب	خزن النطف لحين الحاجة	
		تواقيع أعضاء اللجنة			

Website: iraqedu.net
Telegram: @SadsHelp
Bot: @EDIRQBot

مركز فحص الاعدادية

الاجوبة النموذجية للدراسة الاعدادية للعام الدراسي ٢٠١٩ / ٢٠٢٠

الدور الأول

اسم المادة / الاحياء

الفرع / العلمي / الاحيائي

جواب السؤال (الثالث) فرع (ب)

السؤال	الصفحة	الجواب النموذجي	الدرجة
	ص ٧٩	الاقراص البيضة: العضلة القلبية	ربط نهايات الالياف العضلية القلبية صحيحها
	ص ١٤١	خلايا قالب الجهاز التناسلي الانثوي في الانسان او ١٥١ ذكر الطالب	١- توصيل البويضة الى الرحم ٢- يحصل فيها الاخصاب ٣- عمل البويضة
		بين البويضة والرحم	
		(يكتفي بواحدة)	(يكتفي بواحدة واحدة)

تواقيع أعضاء اللجنة

Website: iraqedu.net
Telegram: @SadsHelp
Bot: @EDIRQBot

مديرية التربية العامة

الاجوبة النموذجية للدراسة الاعدادية للعام الدراسي ٢٠١٩ / ٢٠٢٠

الدور / الاول

اسم المادة / الاحياء

الفرع / العلمي / الاحيائي

جواب السؤال (الرابع) فرع (م)

السؤال	الصفحة	الجواب النموذجي	الدرجة
		علل اربعاً مما يأتي:	١٢ درجة لكل فقرة
١-	ص٥٥	تتمثل الوظيفة الاساسية للسيتوبلازم الحيوانيكمين بالدعم والتقوية: بسبب تغلظ جدران خلاياها وطريقة توزيعها في النبات	
٢-	ص٩٢,٩٤	تفقد الفايروسات القدرة على التكاثر والنمو خارج الخلايا لعدم أمتلاكها العضيات الخلوية ومنها الاجهزة الانزيمية الضرورية للتنفس وبناء البروتين او تضاعف الحامض النووي	٢ درجة
٣-	ص١٠٧	ظهور جيل خيار بلدي من تزاوج ثور احمر بقرة بيضاء لعدم اختلاط تعبير الليلان معاً كون ان هذه الصفة خاضعة للسيادة المتواكبة (المشاركة) اي انه لا يسود	

تواقيع أعضاء اللجنة

اي منهما على الآخر . فلا يوجد سيادة لونية

Website: iraqedu.net Telegram: @SadsHelp Bot: @EDIRQBot

مركز فاطمة الاعدادية

الاجوبة النموذجية للدراسة الاعدادية للعام الدراسي ٢٠١٩/٢٠٢٠ الدور / الاول

اسم المادة / الاحياء ..... الفرع / العلمي الصباحي

جواب السؤال (الرابع) فرع (م)

السؤال	الصفحة	الجواب النموذجي	الدرجة
٤-	ص ١٠٤	تعتقد ان النباتات الارضية الحديثة من انواع متأصلة الحضر ١- كلاهما يمتلك الكلوروفيل فضلاً عن انواع اخرى الصبغات اضافية ٢- كلاهما تخزنان الزائد من الكاربوهيدرات بشكل نشاء ٣- كلاهما يحتوي على سليلوز في جدران خلاياه	
٥-	ص ١٤١	يكثر النخيل بالفسائل لان تكثيرها بالبذور يتطلب وقتاً طويلاً وكذلك لضمان تحديد جنس الشجرة ونوعها	

تواقيع أعضاء اللجنة

Website: iraqedu.net Telegram: @SadsHelp Bot: @EDIRQBot

رقم الصفحة ١٦

مديرية التربية العامة

الاجوبة النموذجية للدراسة الاعدادية للعام الدراسي ٢٠١٩ / ٢٠٢٠

الدور / الاول

اسم المادة / الاحياء

الفرع / العلمي / الاحيائي

جواب السؤال (الرابع) فرع (ب)

السؤال	الصفحة	الجواب النموذجي	الدرجة
		اعطِ مثال واحد لاربع هدايات	٤ درجات لكل فقرة صحيح واحد
	ص ١٤٢	تكيف النباتات لبيئات جديدة ← تضعيم الاجناس على اخوخ	
	ص ١٩	تحول شكلي ← اختفاء ذنب يرقات الضفادع عند تحولها الى ضفادع بالغة (دعاميص)	
	ص ١١٩	تكاثر بالطداوات ← الفراولة	
	ص ٩٠	سيادة غير تامة ← لون ازهار نبات حنك السبع او اذا ذكر الطالب الطرز الوراثي RR, RR, RR ابيض وردي احمر	
	ص ١٧	تركيب يدخل في بناء السليلوز ← الكلوكوز	

او اي جزء كولحي في خلية النباتية

تواقيع أعضاء اللجنة

Website: iraqedu.net
Telegram: @SadsHelp
Bot: @EDIRQBot

رقم الصفحة ١٧

مديرية التربية العامة

الاجوبة النموذجية للدراسة الاعدادية للعام الدراسي ٢٠ / ٢٠

الدور / الاول

اسم المادة / الاحياء

الفرع / العلمي / الاحيائي

جواب السؤال (الرابع) فرع (ج)

السؤال	الصفحة	الجواب النموذجي	الدرجة
الرابع ج ثالثا ملاحظة يمنع شباهتين فقط	ص 95	ج / رتب مع التلاميذ الخلايا البكتيرية (الانسطار الثنائي) (1) كروموسوم سايتوبلازم غشاء بلازمي جدار خلوي (2) (3) (4) (5) الخلايا البكتيرية في الانسطار الثنائي شكل (ج-6) ص 95	٥ درجات توزع للطلاب توزع الدرجات

تواقيع أعضاء اللجنة

Website: iraqedu.net
Telegram: @SadsHelp
Bot: @EDIRQBot

١٨
رقم الصفحة

الاجوبة النموذجية للدراسة الاعدادية للعام الدراسي ٢٠١٩ / ٢٠٢٠

الدور / الاول

اسم المادة / الاحياء

الفرع / الاحيائي

جواب السؤال (الخامس) فرع (م)

السؤال	الصفحة	الجواب النموذجي	الدرجة
		نرمز لعامل صفة خشن الشعر بالرمز R (او أي حرف كبير) نرمز لعامل صفة ناعم الشعر بالرمز r نرمز لعامل صفة (سود اللون بالرمز B (او أي حرف اخر) نرمز لعامل صفة ابيض اللون بالرمز b الاستنتاج م بما انه ظهرت صفة ناعم الشعر في F_1 اذن يجب أن تكون صفة الخشونة في كلا الابوين هجينة . وبما انه ظهرت صفة ابيض اللون ∴ صفة اللون الاسود في الاب يجب أن تكون هجينة . الطراز الوراثي للأب خشن الشعر اسود اللون BbRr الطراز الوراثي للأم خشنة الشعر بيضاء اللون bbRr ♂ خشن الشعر اسود اللون X ♀ خشنة الشعر بيضاء اللون P_1 BbRr bbRr انقسام اختزالي G_1 (BR) (Br) (bR) (br) (bR) (br)	١٦ درجة الرموز ٤ درجات الاستنتاج درجتان التركيب ٦ درجات

تواقيع أعضاء اللجنة

Website: iraqedu.net
Telegram: @SadsHelp
Bot: @EDIRQBot

رقم الصفحة

مركز فا... عدادية

الاجوبة النموذجية للدراسة الاعدادية للعام الدراسي ٢٠١٩ / ٢٠٢٠

الدور / الاول

اسم المادة / الاحياء

الفرع / الاحيائي

جواب السؤال (الخامس) فرع (م)

السؤال	الصفحة	الحلول النموذجي	الدرجة

♂ \ ♀	bR	br
BR	BbRR هجين لشعر اسود اللون	BbRr هجين لشعر اسود اللون
Br	BbRr هجين لشعر اسود اللون	Bbrr نقي لشعر اسود اللون
bR	bbRR هجين لشعر ابيض اللون	bbRr هجين لشعر ابيض اللون
br	bbRr هجين لشعر ابيض اللون	bbrr نقي لشعر ابيض اللون

ملاحظة / في حالة الحل بطريقة عدم كتابة او استخدام مربع بونيت لا يحاسب الطالب ذلك شرط ان يكون الجواب صحيحاً .

توقيع أعضاء اللجنة

Website: iraqedu.net
Telegram: @SadsHelp
Bot: @EDIRQBot

رقم الصفحة

مركز الامتحانات العامة

الاجوبة النموذجية للدراسة الاعدادية للعام الدراسي ٢٠١٩ / ٢٠٢٠

الدور / الاول

اسم المادة / الاحياء

الفرع / العلمي

جواب السؤال (الخامس) فرع (ب)

السؤال	الصفحة	الجواب النموذجي	الدرجة
	ص ٦٤	عدد فقط : (الاجابة عن اولاً او ثانياً) : اولاً : انواع الانسجة النباتية المطبقة ١- النسيج النباتي المطبق الكرشفي ٢- النسيج النباتي المطبق الكعبي ٣- النسيج النباتي المطبق العمودي ٤- النسيج المغزول أو ثانياً : انواع الخلايا العصبية تبعاً لعدد البروزات ١- خلية احادية القطب ٢- خلية احادية القطب كاذبة ٣- خلية ثنائية القطب ٤- خلية متعددة الاقطاب	٤ درجات لكل نقطة درجة واحدة

تواقيع أعضاء اللجنة

Website: iraqedu.net
Telegram: @SadsHelp
Bot: @EDIRQBot

رقم الصفحة ١٧

مركز فحص الاعدادية

الاجوبة النموذجية للدراسة الاعدادية للعام الدراسي ٢٠١٩ / ٢٠٢٠ الدور / الاول

اسم المادة / الاحياء الفرع / الاحيائي

جواب السؤال (الخامس) فرع (ح)

السؤال	الصفحة	الجواب النموذجي	الدرجة
	ص١٠	اشرح الانقسام الثنائي الطويل في البوغليا ١- تنقسم النواة انقسام خيطيا اعتياديا ، ويتكون سوط اضافي ٢- ينقسم السايتوبلازم طوليا ويشكل تدريجي لحين انفصال القسمين بالكامل ليتكون فردان جديدان	٤ درجات لكل نقطة درجتا

تواقيع أعضاء اللجنة

Website: iraqedu.net
Telegram: @SadsHelp
Bot: @EDIRQBot

رقم الصفحة ٢٢

مركز فاطمة الزهراء للدراسات الاعدادية

الاجوبة النموذجية للدراسة الاعدادية للعام الدراسي ٢٠١٩ / ٢٠٢٠ الدور / الاول

اسم المادة / الاحياء الفرع / الاحيائي

جواب السؤال (السادس) فرع (٩)

السؤال	الصفحة	الجواب النموذجي	الدرجة
س٦		٩/ حدد المسؤول عن ثلاث مما يأتي	٦ درجات لكل فقرة درجتان
	ص٩٦	① حبس الاقتران في البكتريا / الاهلاب الجنسية الخلية المعطية	
	ص١٤٣	② افراز هرمون البروجسترون خلال الاشهر الاخيرة من الحمل / المشيمة.	
	ص٣١	③ تحويل الاستالديهايد الى كحول ايثيلي / الاختزال بواسطة الهيدروجين او $(2H)_2$ من التحلل الكحولي	
	ص٢٢	④ حفظ التوازن المائي في الطليعيات / الفجوة المتقلصة	
	ص١٣	⑤ التكيف الوصلي / الوراثة المتنحية (cc) ذات النفاذية التامة	

ملاحظة/ اذا ذكر الطالب السبب هو الوراثة المتنحية فقط ← تعتبر الاجابة صحيحة.

تواقيع أعضاء اللجنة

Website: iraqedu.net
Telegram: @SadsHelp
Bot: @EDIRQBot

رقم الصفحة ٢

مركز فحص الاعدادية

الاجوبة النموذجية للدراسة الاعدادية للعام الدراسي ٢٠١٩ / ٢٠٢٠ — الدور / الاول

اسم المادة / الاحياء — الفرع / الاحيائي

جواب السؤال (السادس) فرع (ب)

السؤال	الصفحة	الجواب النموذجي	الدرجة
س٦		ب/ ما الطراز الوراثي لاربع مما يأتي	٨ درجات لكل نقطة درجتان.
	ص٩٠	① عنك السبع وردي الازهار / RR^1	
	ص١١٠	② شخص سليم من فقر الدم المنجلي / H^AbH^Ab	
	ص١١٥	③ نبات القرع ذو ثمار خضراء / wwyy	
	ص١١٠	④ Rh^- / rhrh	
	ص١١١	⑤ اريب هيمالايا نقي / $^hC^hC$	
		تواقيع أعضاء اللجنة	

Website: iraqedu.net Telegram: @SadsHelp Bot: @EDIRQBot

رقم الصفحة

مركز فحص الاعدادية

الاجوبة النموذجية للدراسة الاعدادية للعام الدراسي ٢٠١٩ / ٢٠٢٠ الدور / الاول

اسم المادة / الاحياء الفرع / الاحيائي

جواب السؤال (السادس) فرع (ج)

السؤال	الصفحة	الجواب النموذجي	الدرجة
س٦	ص١٠٨	ج/ عدد اجزاء المرقمة واذكر وظيفة كل جزء منها ① المبيض / تتكون بداخله البويضات . ② القلم / يربط المبيض بالجزء العلوي الذي يدعى بالميسم . ③ الميسم / ← الضاق حبوب اللقاح عليه	٦ درجة ملاحظة / لكل فقرة درجتان

جمهورية العراق REPUBLIC OF IRAQ وزارة التربية MINISTRY OF EDUCATION

تواقيع أعضاء اللجنة