Website: iraqedu.net Telegram: @SadsHelp Bot: @EDIRQBot

الدراسة : الإعدادية / العلمي (الأحيائي)
المادة : الأحياء
اسم الطالب /

الدور الثالث ١٤٤٢هـ – ٢٠٢٠ م
الوقت : ثلاث ساعات
الرقم الامتحاني/

ملاحظة : أجب عن خمسة أسئلة فقط ولكل سؤال ٢٠ درجة .

س١: أ) املأ الفراغات بما يناسبها لأربع من العبارات الآتية : (٨ درجات)

١) يصنف النسيج الظهاري تبعاً لعدد طبقات الخلايا المكوّنة له إلى ..... و ..... .
٢) يحصل التكاثر في الفايروسات من خلال دورتين متداخلتين أولهما دورة ..... وثانيهما دورة ..... .
٣) الطاقة المتحررة في التنفس اللاهوائي مقدارها ..... وفي التنفس الهوائي ..... .
٤) خلايا الدم البيض الحبيبية تشمل خلايا الدم البيض القعدة و ..... و ..... .
٥) يبدأ نمو البويض بشكل نتوء صغير يدعى ..... متصل بجدار المبيض عن طريق ..... .

ب) قارن بين (لاثنين) فقط : (١٢ درجة)

١) نسيج الخشب ونسيج اللحاء من حيث المكونات والوظيفة .
٢) الاقتران والإخصاب الذاتي في البراميسيوم .
٣) الألياف البيض والألياف الصفر .

س٢: أ) عرّف (أربعاً) ممّا يأتي : (١٢ درجة)

الأيض الخلوي ، التشجرات ، الثالوس الأولي ، التعبيرية ، الانقسام الخيطي .

ب) ما الوظائف التي تؤديها الجسيمات الحالة ؟ (٤ درجات)

جـ) ارسم مع التأشير واحداً ممّا يأتي : (٤ درجات)

١) الإخراج الخلوي . ٢) نطفة الإنسان الناضجة .

س٣: أ) علل أربعاً ممّا يأتي : (١٢ درجة)

١) تستخدم الزراعة النسيجية حالياً في بعض النباتات .
٢) يغطى الميسم بسائل لزج .
٣) تتباين وظيفة الغدتان المساعدتان في الحشرات .
٤) تجري عملية التحلل السكري داخل السايتوبلازم .
٥) اختيار مندل لنبات البزاليا في تجاربه .

ب) ما وظيفة أو أهمية أربعاً ممّا يأتي ؟ (٨ درجات)

قناتي فالوب ، التضريب الاختباري ، البربخ ، الدكتيوسوم ، الخيوط الدقيقة .

س٤: أ) ضرّب نبات بزاليا طويل الساق بآخر قصير الساق فكانت جميع النباتات الناتجة طويلة الساق ، ولو أجري تلقيح لأحد أفراد الجيل الأول مع أحد الأبوين ، فما الطرز الوراثية والمظهرية لأفراد الجيل الثاني ؟ وما نوع التضريب في هذه الحالة ؟ (١٢ درجة)

ب) ما موقع أربعة ممّا يأتي ؟ (٨ درجات)

المخاطين الغضروفي ، الخلية المولدة ، الوسادة التناسلية ، المورثات ، الغشاء القاعدي .

س٥: أ) اكتب الطرز الوراثية لأربع ممّا يأتي : (٨ درجات)

نبات بزاليا أبطي الأزهار نقي ، نبات حنك السبع أحمر الأزهار ، ماشية قصيرة القرون غبارية ، أرنب أمهق ، شخص حامل لمورثة فقر الدم المنجلي .

ب) ممّ يتألف الجهاز التكاثري الذكري لدودة الأرض ؟ (٨ درجات)

جـ) ما التركيب الكيمياوي لاثنين ممّا يأتي ؟ (الغشاء البلازمي ، جدار الخلية ، السايتوبلازم) (٤ درجات)

س٦: أ) ما المجموعة الكروموسومية لأربعة ممّا يأتي ؟ (٨ درجات)

نواة السويداء ، خلية نطفية أولية ، الجسم القطبي الثاني ، النواة المندمجة ، الخلية الأم للأبواغ الصغيرة .

ب) ارسم مع التأشير التكاثر الجنسي في الكلاميدوموناس . (٨ درجات)

جـ) اختر من بين الأقواس ما يناسب اثنتين من العبارات الآتية : (٤ درجات)

١) ثمار التوت الأسود ثمار : (بسيطة ، متجمعة ، مركبة) .
٢) نوع النسيج الضام الرخو الذي يقع في الكبد هو : (شبكي ، مخاطاني ، متوسط) .
٣) يبلغ عدد الكروموسومات في الخلايا الجسمية للضفدع : (٢٦ ، ٨٠ ، ٦٤) .

@sadshelp



"شبكة تعليمية تهدف الى توفير جميع الاحتياجات الدراسية للطلاب في جميع انحاء العراق"

iraqedu.net @sadshelp

قناة تعليمية تقدم لكم

- الكتب المنهجية
- الملازم الدراسية
- الملازم الوزارية
- المراجعات المركزة
- الامتحانات - الاختبارات
- الملخصات
- الاخبار الموثوقة
- التحفيزات - النصائح
- نسخ الأسئلة الوزارية مع الأجوبة النموذجية

امسح الباركود من هنا
للانضمام الينا ليصلك
كل جديد

iraqedu.net @sadshelp

@sadshelp

شبكة المساعد
@SadsHelp

شـبكة تعليمية تهدف الى توفير جميـع الاحتياجات
الدراسـية للـطلاب فـي جميـع انحـاء العـراق

iraqedu.net @sadshelp

بوت المساعد التعليمي

الكتب المنهجية - الملازم الدراسة - الملازم الوزارية - المراجعات المركزة
نسخ الاسئلة الوزارية مع الاجوبة النموذجية

Bot: @EDIRQBot

Website: iraqedu.net
Telegram: @SadsHelp
Bot: @EDIRQBot

رقم الصفحة

مركز فاطمة عدادية

الاجوبة النموذجية للدراسة الاعدادية للعام الدراسي ٢٠١٩ / ٢٠٢٠

الدور / الثالث

اسم المادة / الأحياء

الفرع / العلمي / الأحيائي

جواب السؤال (الأول) فرع (م)

السؤال	الصفحة	الجواب النموذجي	الدرجة
		املأ الفراغات بما يناسبها لاربع من العبارات الآتية :	٨ درجات لكل فقرة درجتان
	ص٥٩	١- النسيج الظهاري البسيط و النسيج الظهاري المطبق	
	ص٩٢	٣- التحلل و التحلل والانشاج	
	ص٢١ ص٢٤	٢- 2 ATP ، ATP 38	
	ص٧٦	٤- خلايا الدم البيض العدلة و خلايا الدم البيض المحببة	
	ص١١١	٥- الجويزاء و الحبل السري	

تواقيع أعضاء اللجنة

نجاة حسين علي — اسلام عبد — ماجد — عادل

Website: iraqedu.net Telegram: @SadsHelp Bot: @EDIRQBot

رقم الصفحة

مركز فحص الاعدادية

الاجوبة النموذجية للدراسة الاعدادية للعام الدراسي ٢٠١٩ / ٢٠٢٠

الدور / الثالث

اسم المادة / الأحياء

الفرع / العلمي / الأحيائي

جواب السؤال (الأول) فرع (ب)

السؤال	الصفحة	الجواب النموذجي	الدرجة
	ص ٥٨	قارن بين (اثنين) فقط : ١- نسيج الخشب ونسيج اللحاء من حيث المكونات والوظيفة الخشب — اللحاء المكونات : اوعية الخشب القصيبات برنكيما الخشب الالياف المكونات : الانابيب المنخلية الخلايا المرافقة الياف اللحاء برنكيما اللحاء الوظيفة : - نقل الماء والمعادن - الخزن - الاسناد والتقوية الوظيفة : - نقل الجزيئات العضوية داخل جسم النبات - نقل الكاربوهيدرات مثل السكروز في الانابيب المنخلية - الاسناد	١٢ درجة لكل مقارنة ٦ درجات

تواقيع أعضاء اللجنة

iraqedu

Website: iraqedu.net Telegram: @SadsHelp Bot: @EDIRQBot

مركز فحص الاعدادية

الاجوبة النموذجية للدراسة الاعدادية للعام الدراسي ٢٠١٩ / ٢٠٢٠

الدور / الثاني

اسم المادة / الاحياء

الفرع / الاحيائي

جواب السؤال (الأول) فرع (ب)

السؤال	الصفحة	الجواب النموذجي	الدرجة
		⑤ الاقتران والانجذاب الذاتي في البراسيوم	٦ درجات

الاقتران	الانجذاب الذاتي
١- تتبادل الانوية الذكرية في الكائنين المقترنين وتتحد مع الانوية الانثوية لتكون النواة المندمجة التي تحوي العدد الكامل من الكروموسومات	١- لا يحصل عملية تبادل للانوية حيث ان النواتين الصغيرتين الاوليتين اللتان تحتويان نصف العدد الكامل من الكروموسومات تتحدان لتكونا معاً نواة مندمجة
٢- النواة المندمجة متباينة العوامل الوراثية	٢- النواة المندمجة متماثلة العوامل الوراثية
٣- عملية تكاثر جنسي	٣- عملية تكاثر جنسي

تواقيع أعضاء اللجنة

Website: iraqedu.net Telegram: @SadsHelp Bot: @EDIRQBot

رقم الصفحة

مركز ... عدادية

الاجوبة النموذجية للدراسة الاعدادية للعام الدراسي ٢٠١٩ / ٢٠٢٠

الدور / الثالث

اسم المادة / احياء

الفرع / العلمي / احياء

جواب السؤال (١ / اول) فرع (ب)

السؤال	الصفحة	الجواب النموذجي	الدرجة
	٦٧	١ الالياف البيض والالياف الصفر	
		(٢) الالياف البيض / الالياف الصفر	
		١- يسمى بالابيض لكونه ابيض في حالة الطراوة / ١- يسمى بالاصفر للونه الاصفر في حالة الطراوة	
		٢- يوجد بشكل حزم مؤلفة من عدة الياف وكل ليف يتكون من ليفات (غير متفرعة) / ٢- يوجد بصورة مفردة ولا يشكل حزماً وتتفرع الالياف الصفر	٦ درجات
		٣- له اهمية ميكانيكية في النسيج الهام كونه يقاوم السحب / ٣- تكون مرنة سهلة التمدد ولكنها ليست قوية كقوة الالياف البيض	

توقيع أعضاء اللجنة

Website: iraqedu.net Telegram: @SadsHelp Bot: @EDIRQBot

رقم الصفحة

مركز فحص عدادية

الاجوبة النموذجية للدراسة الاعدادية للعام الدراسي ٢٠١٩ / ٢٠

الدور / الثالث

اسم المادة / الاحياء

الفرع / العلمي الاصلي

جواب السؤال (الثاني) فرع (م)

السؤال	الصفحة	الجواب النموذجي	الدرجة
		عرف اربعاً مما يأتي	١٢ درجة لكل تعريف ٢ درجات
١-	ص ٢	الايض الخلوي : هو مجموعة من التحولات الكيمائية التي تحدث في الخلية بمساعدة الانزيمات في الخلية وتتضمن عليه الهدم وعند طريقها تتحلل الاغذية وعملية البناء وعند طريقها تبنى النواتج الجديدة	
٢-	ص ٨٠	التشجرات : وهي نتوءات او بروزات من جسم الخلية توصل الاشارات او المؤثرات العصبية الى جسم الخلية العصبية	
٣-	ص ١٠٦	الثالوس الاولي : هو تركيب قليل التشكل اقل اللون يحمل اركيغونيوم وهو الحافظة المشيجية الانثوية والانثريديوم وهو الحافظة المشيجية الذكرية وينمو من طرفه المديد اشباه جذور وهو نباتي من نمو الابواغ ويمثل الطور المشيجي في السرخسيات	

تواقيع أعضاء اللجنة

Website: iraqedu.net Telegram: @SadsHelp Bot: @EDIRQBot

مركز فحص الاعدادية

الاجوبة النموذجية للدراسة الاعدادية للعام الدراسي ٢٠١٩ / ٢٠٢٠

الدور / الثالث

اسم المادة / الاحياء

الفرع / العلمي الاحيائي

جواب السؤال (الثاني) فرع (ـ م ـ)

السؤال	الصفحة	الجواب النموذجي	الدرجة
٤-	ص ١١٢	التجربة : وهي وجود الليل بامكانه انتاج مدى متغاير من الطرز المظهرية مثل العين المتحمة لطفرة العدام العين في الحشرات	لكل تعريف صحيح درجتان
٥-	ص ٢٤	الانقسام الخيطي : هو عملية انقسام النواة بصورة تضمن تسلم كل من الخليتين البنويتين الجديدتين نفس العدد ونفس النوعية من الكروموسومات الموجودة أصلا في خلية الام	

تواقيع أعضاء اللجنة

Website: iraqedu.net Telegram: @SadsHelp Bot: @EDIRQBot

مركز فحص الاعدادية

الاجوبة النموذجية للدراسة الاعدادية للعام الدراسي ٢٠١٩ / ٢٠٢٠ الدور / الثاني

اسم المادة / الاحياء الفرع / العلمي / الاصلي

جواب السؤال (الثاني) فرع (ب)

السؤال	الصفحة	الجواب النموذجي	الدرجة
	١٩ ص	ما الوظائف التي تؤديها الحيمياث الحالة ① تخلص السايتوبلازم من بعض الفضلات الغذائية وقطع البايتوكوندريا والاجسام المركزية والفجوات ② - لها دور في عملية النقل الشكلي في الحيوانات مثل اختفاء ذنب ويرقات (يرقات) الضفدع عند تحولها الى ضفادع بالغة وتتم هذه العملية من خلال تحرر انزيمات الجسيمات الحالة الى السايتوبلازم وينتج عن ذلك هضم محتويات السايتوبلازم من الجزيئات الكبيرة وبالتالي موت الخلية بعملية التحلل الذاتي وتتهدم هذه العملية في خلال ايام الكائنات الحية بعد موتها ③ تطهير الخلايا المكونة لها عند موت الكائن الحي ④ - تدوير العناصر في الطبيعة من خلال عملية التحلل الذاتي	٤ درجات

تواقيع أعضاء اللجنة

Website: iraqedu.net Telegram: @SadsHelp Bot: @EDIRQBot

رقم الصفحة ١٨

مركز قياس عدادية

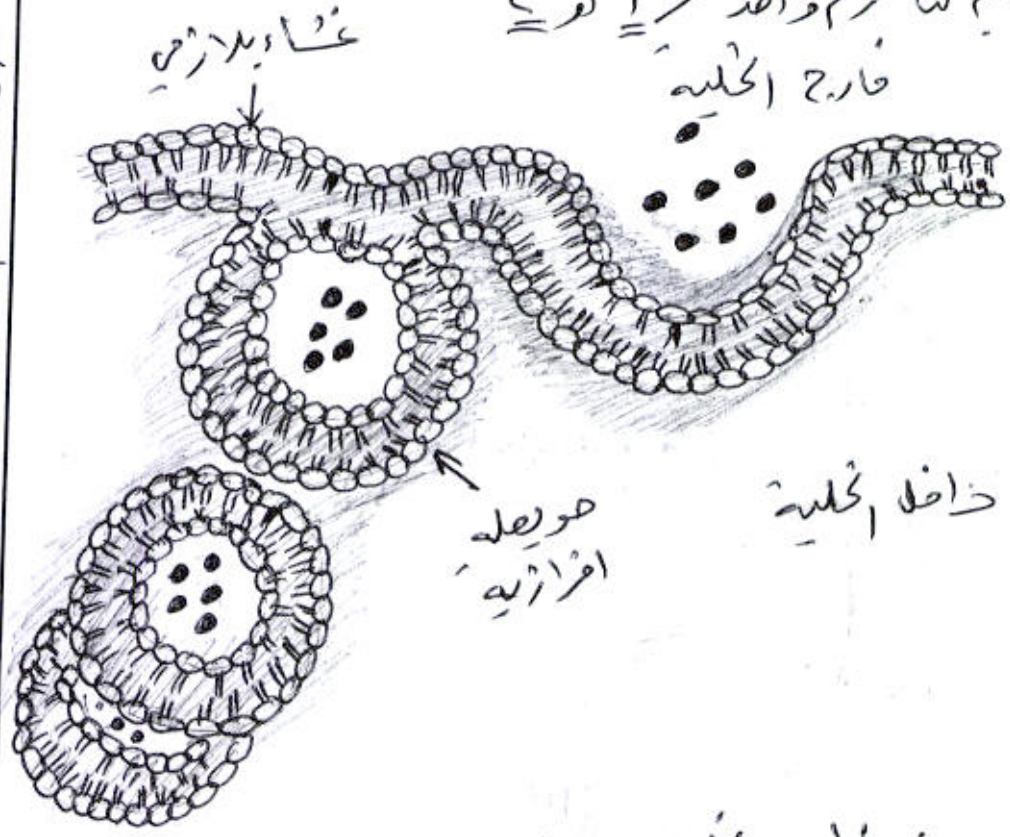
الاجوبة النموذجية للدراسة الاعدادية للعام الدراسي ٢٠١٩ / ٢٠٢٠

الدور / الثاني

اسم المادة / الأحياء

الفرع / العلمي

جواب السؤال (الثاني) فرع (العلمي)

السؤال	الصفحة	الجواب النموذجي	الدرجة
الثاني ج	30	الاجابة تشمل ذكر واحد  الاندماج الخلوي (ينظر (1-22) ص 30	٤ درجات ٣ درجة للشكل ٣ درجة للمناقشة

ملاحظة تلتقي الصح شايحسبلن مثقل

تواقيع أعضاء اللجنة

Website: iraqedu.net Telegram: @SadsHelp Bot: @EDIRQBot

رقم الصفحة ١

مركز قياس الاعدادية

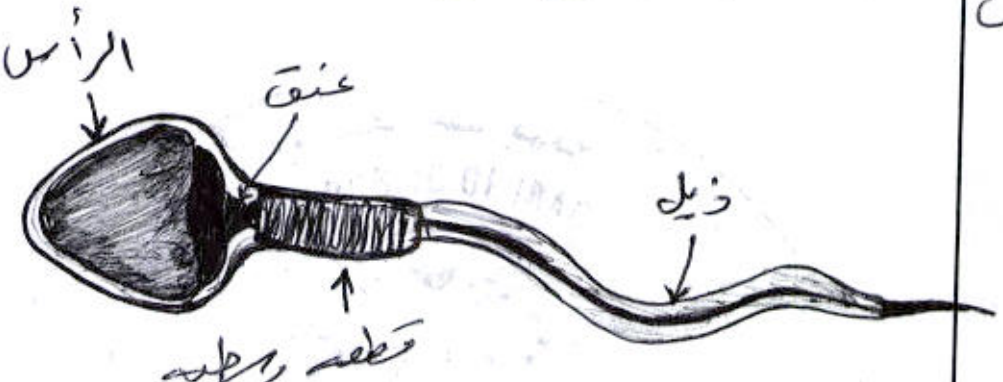
الاجوبة النموذجية للدراسة الاعدادية للعام الدراسي ٢٠١٩ / ٢٠٢٠

الدور / الثاني

الفرع / الاحيائي

اسم المادة / الاحياء

جواب السؤال (الثاني) فرع (ج / ٧)

السؤال	الصفحة	الجواب النموذجي	الدرجة
الثاني	ص ١٩١	الخلية الحيوانية المنوية ١ لكل ٤	٤ درجات
ثم ج			٣ درجات للرسم
		« نطفة الانسان الناضجة » شكل (ج-39) ص ١٩١	٣ درجات للتأشير
		ملاحظة يتقبل الصح شباشين نقط	

توقيع أعضاء اللجنة

Website: iraqedu.net Telegram: @SadsHelp Bot: @EDIRQBot

مركز ... والاعدادية

الاجوبة النموذجية للدراسة الاعدادية للعام الدراسي ٢٠١٩ / ٢٠٢٠ الدور / الثاني

اسم المادة / علوم الحياة الفرع / الاحيائي

جواب السؤال (الثالث) فرع (ج)

السؤال	الصفحة	الجواب النموذجي	الدرجة
س٢		ج/ علل أربعاً مما يأتي.	
	ص١٤٣	① ج- أنها وسيلة تستخدم حالياً للحصول على نباتات تتميز بصفات مرغوبة محدودة مثل مقاومة الملوحة والتغيرات في درجات الحرارة.	١٢ درجة
		ب- تستخدم للتغلب على بعض المعوقات الزراعية مثل طول دورة حياة النبات كما هو الحال في النخيل أو عدم توفر الشتلات النباتية بالكمية المناسبة.	
	ص١٨١	② لتسهيل عملية التصاق حبوب اللقاح عليه.	١٣ درجة
	ص١٣٤	③ فهي تكوينات تحت سرية تتكون كيس البيض كما هو الحال في الهدرا. وقد تستعمل للدفاع كما في حالات التحل وفي النمل تستخدم في تعليم مسار الكشرة وتكوين كيس النطف في الذكور.	١٢ درجة
	ص٢١	④ لوجود أنزيمات تهضمها.	
	ص١٩٢	⑤ لأنه يتسم بتغاير الوراثي وقدرته على التعويض بسهولة وقابليته للترجين بصوره اصطناعية.	نموذجية

تواقيع أعضاء اللجنة

نجاة حسين اخلاص تبارك ماجد شهران قاسم حرفة

Website: iraqedu.net Telegram: @SadsHelp Bot: @EDIRQBot

رقم الصفحة

مركز ... عدادية

الاجوبة النموذجية للدراسة الاعدادية للعام الدراسي ٢٠١٩ / ٢٠٢٠

الدور / الثاني

اسم المادة / علوم الحياة

الفرع / الاحيائي

جواب السؤال (١ الثاني) فرع (ب)

السؤال	الصفحة	الجواب النموذجي		الدرجة
		ب/ عارف أو أهمية أربعاً مما يأتي :		٨
		التركيب	الوظيفة	
٢	ص ١٤٤	قناة قالوب	توصل البويضة في المبيض الى الرحم وعادة يحدث الاخصاب في البويضة فيها .	٢
	ص ٢٠	التضريب الاختياري	التعرف على الطراز الوراثي للفرد الذي يحمل الصفة السائدة المجهولة التقاوة .	٢
	ص ١٣٩	البريخ	تنضج فيه النطف وهو يمثل موقع خزن النطف .	٢
	ص ١٤١	الدكتوسوم	يقوم ببناء السيليلوز وبعض مكونات الجدار الخلوي في الخلية النباتية .	٢
	ص ٩	الكيوط الرقيقة	مسؤول عن قدرة الخلية في التقلص والانبساط .	٢

توقيع أعضاء اللجنة

فجاة حسين امداح عبد الصاحب عابر ماجد شكران عاكم

Website: iraqedu.net Telegram: @SadsHelp Bot: @EDIRQBot

رقم الصفحة ١٧

الاجوبة النموذجية للدراسة الاعدادية للعام الدراسي ٢٠١٩ / م ٢٠

الدور / الثاني

اسم المادة / علوم الحياة

الفرع / الحياتي

جواب السؤال (الرابع) فرع (أ)

السؤال	الصفحة	الجواب النموذجي	الدرجة
	٦٧ ص	نرمز لعامل صفة طويل الساق السائد T نرمز لعامل صفة قصير الساق المتنحي t الاستنتاج أو المناقشة ∵ جميع أفراد F1 كانت نباتات طويلة الساق ∴ صفة طويل الساق هي صفة سائدة نقية التضريب نبات طويل الساق سائد نقي × نبتة قصيرة الساق متنحية P1 TT × tt أنقسام ↓ ↓ أختزالي G1 (T) (t) F1 Tt ١٠٠٪ نباتات طويلة الساق سائدة نقية ملاحظة / يمكن للطالب استعمال اي حرف من حروف اللغة الانكليزية بشرط ان يكون كبيراً للصفة السائدة وصغيراً للصفة المتنحية	١٢ درجة موزعة كالاتي درجتان للرموز درجتان للاستنتاج درجتان اسم التضريب درجتان لكل تضريب

تواقيع أعضاء اللجنة

لجاه حسين / اخلاص جابر / تاكم حريرش ماجدة

Website: iraqedu.net Telegram: @SadsHelp Bot: @EDIRQBot

رقم الصفحة

الاجوبة النموذجية للدراسة الاعدادية للعام الدراسي ٢٠١٩ / ٢٠٢٠

الدور / الثالث

اسم المادة / ..... الاحياء .....

الفرع / ..... الاحيائي

جواب السؤال (الرابع) فرع (أ)

السؤال	الصفحة	الجواب النموذجي	الدرجة

تابع للسؤال الرابع الفرع أ

عند اجراء تضريب بين فرد من الجيل الاول (هجين) مع احد الابوين يسمى التضريب في هذه الحالة ((التضريب الرجعي)) وهناك احتمالين

الاحتمال الاول

نبات طويل الساق سائد هجين X نبات طويل الساق سائد نقي

P_2 TT Tt

انقسام اختزالي

G_2 (T) (T) (t)

اخصاب

F_2 TT + Tt

TT ١٠٠٪ طويل الساق سائد نقي

Tt ١٠٠٪ طويل الساق سائد هجين

الاحتمال الثاني

نبات طويل الساق سائد هجين X نبات قصير الساق متنحي

P_2 tt Tt

انقسام اختزالي

G_2 (t) (T) (t)

اخصاب

F_2 Tt tt

Tt ١٠٠٪ طويل الساق هجين

tt ١٠٠٪ قصير الساق

تواقيع أعضاء اللجنة

Website: iraqedu.net Telegram: @SadsHelp Bot: @EDIRQBot

رقم الصفحة ١٤

مركز فحص الاعدادية

الاجوبة النموذجية للدراسة الاعدادية للعام الدراسي ٢٠١٩ / ٢٠٢٠ م

الدور / الثاني

اسم المادة / الاحياء

الفرع / الاحياء

جواب السؤال (الرابع) فرع (ب)

السؤال	الصفحة	الجواب النموذجي		الدرجة
		ما موقع أربعة مما يأتي		٨ درجات
		اسم التركيب	الموقع	درجتان لكل اجابة صحيحة مع ترك واحدة
	٧٠	الخاطين الغضروفي	المادة البينية لنسيج الغضروف	
	١١٠	الخلية المولدة	حبة اللقاح (الطور المشيجي الذكري غير الناضج)	
	١٢٧	الوحدة التناسلية	الاصبع الاول في الطرف الامامي للذكر الضفدع	
	٤٠	الصبغيات	الكروموسومات	
	٥٩	الغشاء القاعدي	تستقر عليه خلايا النسيج الظهاري	

تواقيع أعضاء اللجنة

Website: iraqedu.net Telegram: @SadsHelp Bot: @EDIRQBot

رقم الصفحة

مركز ... الاعدادية

الاجوبة النموذجية للدراسة الاعدادية للعام الدراسي ٢٠١٩ / ٢٠٢٠

الدور / الثاني

اسم المادة / الاحياء

الفرع / الاحيائي

جواب السؤال (الخامس) فرع (٢)

السؤال	الصفحة	الجواب النموذجي	الدرجة
		٢/ اكتب الطراز الوراثي لاربع مما يأتي	٨ درجات لكل طراز درجتان
	ص ١٩٤	١- نبات بزاليا ابطي الازهار نقي / AA ويمكن كتابة اي حرف كبير اخر	
	ص ٢٠٩	٢- نبات حنك السبع احمر الازهار / RR	
	ص ٢١١	٣- ماشية قصيرة القرون / $C^{w}C$	
	ص ٢١٢	٤- ارنب امهق / $c^{a}c^{a}$	
	ص ٢١٤	٥- شخص حامل لمورثة فقر الدم المنجلي / $Hb^{A}Hb^{S}$	

توقيع أعضاء اللجنة

Website: iraqedu.net Telegram: @SadsHelp Bot: @EDIRQBot

رقم الصفحة

مركز [illegible] الاعدادية

الاجوبة النموذجية للدراسة الاعدادية للعام الدراسي ٢٠١٩ / ٢٠٢٠

الدور / الثاني

اسم المادة / الاحياء

الفرع / الاحيائي

جواب السؤال (الخامس) فرع (ب)

السؤال	الصفحة	الجواب النموذجي	الدرجة
	ص ١٣٠	ب/ مم يتألف الجهاز التكاثري الذكري لدودة الارض ١- زوجان من الخصى الصغيره تقعان في الحلقتين ١٠ و ١١. ٢- زوجان من الاقماع المنويه تمثل كل منها ترتيب قمعي يقع قرب كل خصيه . ٣- زوج من الاقنيه الناقله للحيامن تمتد الى الحلقه ١٥ يفتح كل منهما بفتحه منفصله على السطح البطني لتلك الحلقه الجسميه . ٤- تحاط الخصى والاقماع المنويه والاقنيه الناقله للحيامن لكل جانب بثلاث حويصلات منويه (يكون المجموع ثلاث ازواج من الحويصلات المنويه للجانبين) .	٨ درجات لكل نقطه درجتان

تواقيع أعضاء اللجنة

Website: iraqedu.net Telegram: @SadsHelp Bot: @EDIRQBot

رقم الصفحة ١٧

مركز ... عدادية

الاجوبة النموذجية للدراسة الاعدادية للعام الدراسي ٢٠١٩ / ٢٠٢٠

الدور / الثاني

اسم المادة / الاحياء

الفرع / الاحياء

جواب السؤال (الخامس) فرع (ج)

السؤال	الصفحة	الجواب النموذجي	الدرجة
		ج/ ما التركيب الكيميائي لاثنين مما يأتي :-	٤ درجات لكل نقطة درجتان
	ص ١٤	١- الغشاء البلازمي / جزيئات دهون مفسفره مع جزيئات بروتين .	
	ص ١٤	٢- جدار الخلية / السليلوز في الخلايا الفتيه وتتخشن باضافة الخشبين (اللكنين) في الخلايا المتقدمه في العمر .	
	ص ١٥	٣- السايتوبلازم / (٨٠٪) ماء (١٥٪) بروتين (٥٪) شحوم وسكريات واملاح متنوعه .	

تواقيع أعضاء اللجنة

Website: iraqedu.net Telegram: @SadsHelp Bot: @EDIRQBot

مركز فحص الاعدادية

الاجوبة النموذجية للدراسة الاعدادية للعام الدراسي ٢٠١٨ / ٢٠١٩

الدور / الثالث

اسم المادة / الاحياء

الفرع / العلمي / الاحيائي

جواب السؤال (السادس) فرع (م)

السؤال	الصفحة	الجواب النموذجي	الدرجة
		١- المجموعة الكروموسومية الرابعة صبغياتي	٨ درجات لكل نقطة
١-	ص ١١٢	نواة بويضة = ٢ س	
٢-	ص ٩٠	خلية نطفية اولية = ٢ ن	
٣-	ص ٩٢	الجسم القطبي الثاني = س	٢ درجة
٤-	ص ٩٩	النواة المذنبة = ٢ س	
٥-	ص ١١٠	الخلية اللام للوعاء الصفري = ٢ ن	

توقيع أعضاء اللجنة

Website: iraqedu.net Telegram: @SadsHelp Bot: @EDIRQBot

مركز قياس الاعدادية

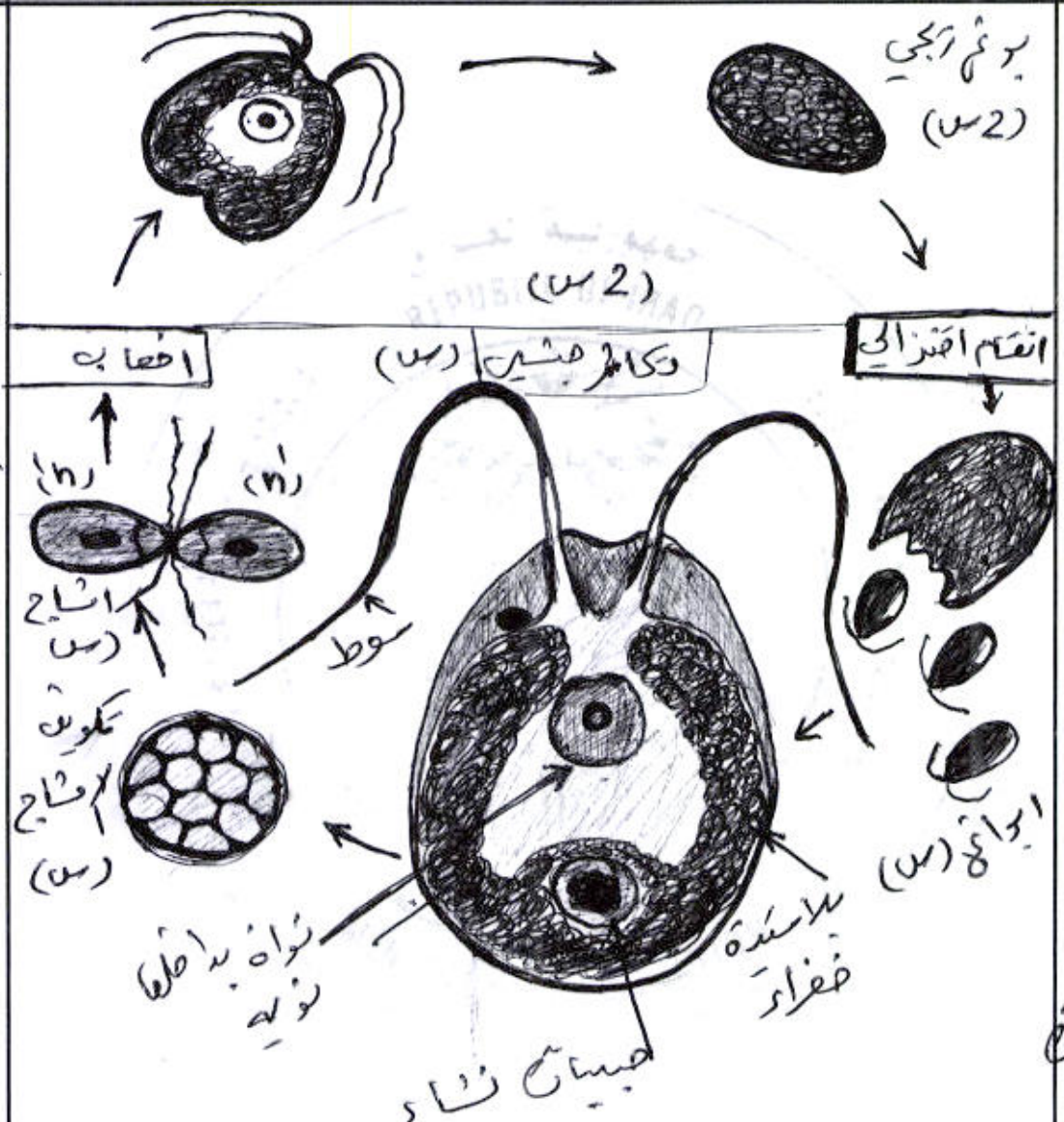
الاجوبة النموذجية للدراسة الاعدادية للعام الدراسي ٢٠١٩ / ٢٠٢٠

الدور / الثاني

اسم المادة / الاحياء

الفرع / الاحيائي

جواب السؤال (ا ب د) فرع (ب)

السؤال	الصفحة	الجواب النموذجي	الدرجة
ا ب د ج ب	ص 98	 « الانقسام الخشن في النبات البذري » شكل (ح - ك) ص 98	٨ درجات ٤ درجات للشكل ٤ درجات للتراكيب
ملاحظة: يكتفي بتاريخ المصحح بثلاثة انقسامات فقط			

تواقيع أعضاء اللجنة

Website: iraqedu.net Telegram: @SadsHelp Bot: @EDIRQBot

رقم الصفحة ٢

مركز فحص عدادية

الاجوبة النموذجية للدراسة الاعدادية للعام الدراسي ٢٠١٩ / ٢٠٢٠

الدور / الثالث

اسم المادة / الاحياء

الفرع / الاحياء

جواب السؤال (السادس) فرع (ج)

السؤال	الصفحة	الجواب النموذجي	الدرجة
		ج/ أختر من بين الاقواس ماينا سب اثنتين من العبارات الاتيه :-	٤ درجات لكل نقطة درجتان
	ص ١١٧	١- ثمار التوت الاسود ثمار: (بسيط ، مجتمعه ، مركبه)	
	ص ٦٩	٢- نوع النسيج الظام الرخو الذي يقع في الكبد هو (شكر ، مخاطاني ، متوسط) .	
		٣- يبلغ عدد الكروموسومات في الخلايا الجسميه للضفدع (٢٦ - ٨٠ - ٦٤)	

تواقيع أعضاء اللجنة