Website: iraqedu.net
Telegram: @SadsHelp
Bot: @EDIRQBot

اللجنة الدائمة للامتحانات العامة
الدراسة : الإعدادية / العلمي (الأحيائي)
المادة : الأحياء
التمهيدي ١٤٤١ هـ – ٢٠٢٠ م
الوقت : ثلاث ساعات

ملاحظة : أجب عن خمسة أسئلة فقط ، ولكل سؤال ٢٠ درجة .

س١ : أ) علل ثلاثاً ممّا يأتي : (١٢ درجة)
١) الوظيفة الرئيسة للمايتوكوندريا هي التنفس الخلوي .
٢) غالباً ما تكون خلايا النسيج البرنكيمي كروية الشكل أو مضلعة .
٣) ينصح المزارعون بإقامة خلايا النحل في البساتين أو قريباً منها .
٤) يطلق على العضلات الهيكلية تسمية العضلات المخططة .
٥) يطعم الأجاص على أصول الخوخ .

ب) أجب عن أولاً أو ثانياً : (٨ درجات)
أولاً : ما نوع التكاثر اللاجنسي لأربعٍ ممّا يأتي ؟
البكتريا ، اليوغلينا ، الفراولة ، الألمازة ، الورد الجهنمي .
ثانياً : مِمَ يتألف جهاز التكاثر الذكري لدودة الأرض ؟ وضّح ذلك .

س٢ : أ) عرّف أربعاً ممّا يأتي : (١٢ درجة)
الانقسام الخيطي ، التضريب الاختباري ، الجويزاء ، الخلايا البينية ، المخاطين الغضروفي .

ب) ارسم مع التأشير واحداً ممّا يأتي : (٨ درجات)
١) نسيج ظهاري عمودي مطبق كاذب مهدّب . ٢) تركيب المايتوكوندريا .

س٣ : أ) املأ الفراغات لأربع من العبارات الآتية : (٨ درجات)
١) في الطور المشيجي الناضج للبوليتراكم يحمل الساق الورقي أمّا ..... وهي حافظات مشيجية ذكرية أو ..... وهي حافظات مشيجية أنثوية .
٢) يوجد نوعان من الخلايا السكلرنكيمية هي ..... و ..... .
٣) خلايا الدم البيض اللاحبيبية تشمل نوعين هما ..... و ..... .
٤) تتكون السداة من ..... و ..... .
٥) للتطعيم طرق مختلفة منها ..... و ..... .

ب) ما الطراز الوراثي لأربع مما يأتي ؟ (٨ درجات)
نبات بزاليا قصير الساق ، شخص دمه O ، ماشية غبارية ، فأر أصفر هجين ، أرنب أمهق .

جـ) عدد أنواع النسيج الظهاري البسيط . (٤ درجات)

س٤ : أ) رجل تسلسل ولادته الأول في العائلة ذو مجموعة Rh^+ كان والده ذو Rh^+ أيضاً ، ولكن والدته كانت ذات Rh^- ، تزوج هذا الرجل من امرأة ذات Rh^+ ولكن والدها ذا Rh^- ، تنبأ بمجموعة الدم Rh لأولاده الناتجين مع بيان عدد أولاده الذين سوف لا يصابون بمرض اليرقان . (١٢ درجة)

ب) ما وظيفة أو أهمية أربع ممّا يأتي ؟ (٨ درجات)
النوية ، الجسيم الطرفي ، البلاستيدات عديمة اللون ، جهاز كولجي في الخلايا النباتية ، النسيج الكولنكيمي .

س٥ : أ) قارن بين (أجب عن اثنين) : (١٢ درجة)
١) البلازما واللمف . ٢) التخمر الكحولي والتخمر اللبني .
٣) السيادة التامة والسيادة غير التامة .

ب) ارسم مع التأشير مخطط (تعاقب الأجيال في تكاثر النباتات) . (٨ درجات)

س٦ : أ) ما خطوات الزراعة النسيجية للنخيل ؟ (١٠ درجات)

ب) ارسم مع التأشير واحداً ممّا يأتي : (٤ درجات)
١) تركيب المبيض في الهايدرا . ٢) تركيب الثمرة .

جـ) اختر الإجابة الصحيحة من بين الأقواس لثلاثٍ ممّا يأتي : (٦ درجات)
١) الطريقة الشائعة للتغذية في الأميبا (الشرب الخلوي ، البلزمة ، البلعمة) .
٢) يتضاعف الجسيم المركزي في الطور (البيني ، الانفصالي ، النهائي) .
٣) تعرق الأوراق في النباتات ذوات الفلقتين (متوازي ، شبكي ، عمودي) .
٤) العضلات التي يكون شكل خلاياها مغزلي بنهايتين مستدقتين وتغلظ في الوسط هي (الملساء ، القلبية ، الهيكلية) .

@sadshelp



"شبكة تعليمية تهدف الى توفير جميع الاحتياجات الدراسية للطلاب في جميع انحاء العراق"

iraqedu.net @sadshelp

قناة تعليمية تقدم لكم

- الكتب المنهجية
- الملازم الدراسية
- الملازم الوزارية
- المراجعات المركزة
- الامتحانات - الاختبارات
- الملخصات
- الاخبار الموثوقة
- التحفيزات - النصائح
- نسخ الأسئلة الوزارية مع الأجوبة النموذجية

امسح الباركود من هنا
للانضمام الينا ليصلك
كل جديد

iraqedu.net @sadshelp

@sadshelp

شبكة المساعد
@SadsHelp

شـبكة تعليمية تهدف الى توفير جميـع الاحتياجات
الدراسـية للـطلاب فـي جميـع انحـاء العـراق

iraqedu.net @sadshelp

بوت المساعد التعليمي

الكتب المنهجية - الملازم الدراسة - الملازم الوزارية - المراجعات المركزة
نسخ الاسئلة الوزارية مع الاجوبة النموذجية

Bot: @EDIRQBot

Website: iraqedu.net Telegram: @SadsHelp Bot: @EDIRQBot

رقم الصفحة ١

الاجوبة النموذجية للدراسة الاعدادية للعام الدراسي ٢٠١٩ / ٢٠٢٠

الدور / التمهيدي

اسم المادة / الأحياء

الفرع / العلمي / الاحيائي

جواب السؤال (الأول) فرع (٣)

السؤال	الصفحة	الجواب النموذجي	الدرجة
		علل ثلاثاً مما يأتي :	١٢ درجة لكل فقرة اربع درجات
	ص ١٧	١- وذلك لاحتوائها على الزيوت العطرية	
	ص ٥٥	٢- نتيجة للضغط الواقع عليها من الخلايا المجاورة	
	ص ١١٢	٣- لضمان حدوث التلقيح الخلطي للازهار وبالتالي الحصول على نباتي وضيء وذو نوعية جيدة .	
		ملاحظة / اذا ذكر الطالب للحصول على ثمار وبذور كبيرة الحجم والعدد أو اسباب نحو أخر تعتبر الاجابة صحيحة .	
	ص ٧٨	٤- وذلك لان الشكل الهيكلي يتميز بتخطيط عرضي حيث تظهر مناطق غامقة واخرى فاتحة مما يعطي الليف ككل مظهراً مخططاً .	
	ص ١٤٢	٥- لغرض تكييف وأقلمة النباتات لبيئات مختلفة جديدة . وذلك لان الاجانب لا يوجد أي فيها التربة الرملية ولكن يمكن زرعها بنجاح في مثل هذه التربة عن طريق التطعيم على اصول اشجار الكوخ .	

Website: iraqedu.net Telegram: @SadsHelp Bot: @EDIRQBot

رقم الصفحة ٤

الاجوبة النموذجية للدراسة الاعدادية للعام الدراسي ٢٠١٩ / ٢٠٢٠

الدور / الجهيري

اسم المادة / الاحياء

الفرع / العلمي / الاحيائي

جواب السؤال (١/ اول) فرع (ب)

السؤال	الصفحة	الجواب النموذجي	الدرجة
		أجيب عن أولاً او ثانياً :	٨ درجات لكل نقطة درجتان
		اولاً : ما نوع التكاثر اللاجنسي لاربع مما يأتي :	
	ص ٩٤	١ البكتريا ⇐ الانشطار الثنائي	
	ص ١٠٠	٢ اليوغلينا ⇐ الانقسام الثنائي الطولي (الانشطار)	
	ص ١١٩	٣ الفراولة ⇐ الملدات (تكاثر خضري طبيعي)	
	ص ١٢٤	٤ الاملازة ⇐ الكورمات (تكاثر خضري طبيعي)	
	ص ١٢١	٥ الورد الجهنمي ⇐ الترقيد (تكاثر خضري اصطناعي)	
		ملاحظة // اذا ذكر الطالب فقط ما بين الاقواس في النقطة (٢-٤-٥) يعطى درجة واحدة . اما اذا ذكر الطريقة الخاصة بدون الاقواس فيعطى درجة كاملة .	

Website: iraqedu.net Telegram: @SadsHelp Bot: @EDIRQBot

الاجوبة النموذجية للدراسة الاعدادية للعام الدراسي ٢٠١٩ / ٢٠٢٠

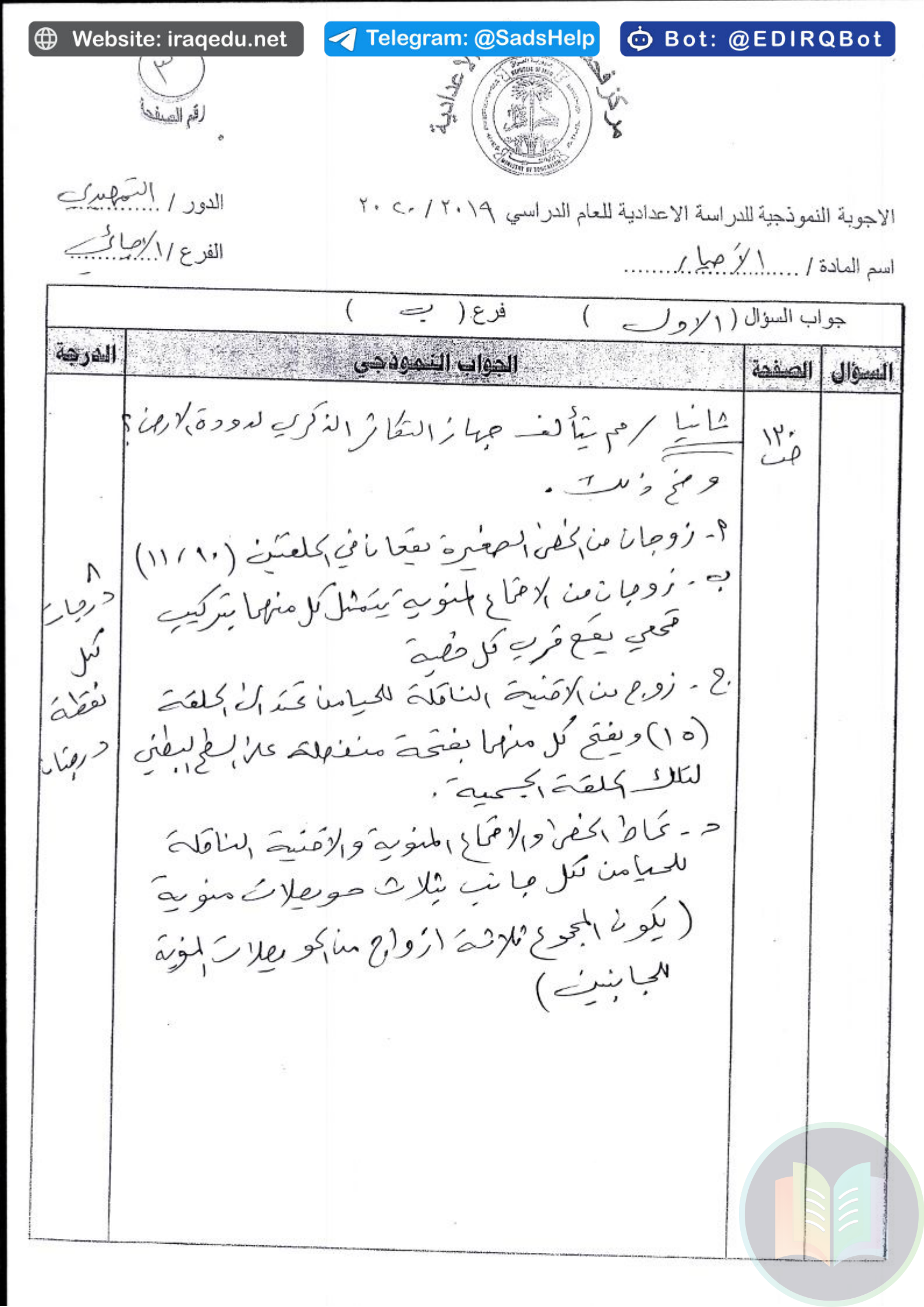
الدور / التمهيدي

اسم المادة / الأحياء

الفرع / الأحيائي

جواب السؤال (الأول) فرع (ب)

السؤال	الصفحة	الجواب النموذجي	الدرجة
	١٢٠ ص	ثانياً / مع تأليف جهاز التكاثر الذكري لدودة الأرض ومع ذلك . أ- زوجان من الكظر الصغيرة يقعان في الحلقتين (١٠ ، ١١) ب- زوجان من الاقماع المنوية يمثل كل منهما تركيب متحمي يقع قرب كل خصية ج- زوج من الاقنية الناقلة للحيامن تمتد الى الحلقة (١٥) ويفتح كل منهما بفتحة منفصلة على السطح البطني لتلك الحلقة الجسمية . د- تحاط الكظر والاقماع المنوية والاقنية الناقلة للحيامن لكل جانب بثلاث حويصلات منوية (يكون المجموع ثلاثة ازواج من الحويصلات المنوية للجانبين)	٨ درجات لكل فقرة درجتان



Website: iraqedu.net Telegram: @SadsHelp Bot: @EDIRQBot

رقم الصفحة ٤

الاجوبة النموذجية للدراسة الاعدادية للعام الدراسي ٢٠١٩ / ٢٠٢٠

اسم المادة / الأحياء

الدور / التمهيدي

الفرع / العلمي / الاحيائي

جواب السؤال (الثاني) فرع (ب)

السؤال	الصفحة	الجواب النموذجي	الدرجة
	ص ٢٤	عرف اربعاً مما يأتي : الانقسام الخيطي / هو عملية انقسام النواة بصورة تضمن تسلم كل من الخليتين البنويتين الجديدتين نفس العدد ونفس النوعية من الكروموسومات الموجودة اصلاً في الخلية الأم .	١٢ درجة لكل تعريف ثلاث درجات
	ص ١٠٠	التهجين الاختباري / هو تهجين يجري بين فردين احدهما يحمل الصفة السائدة مجهولة النقاوة والآخر يحمل الصفة المتنحية ، الهدف منه معرفة الطراز الوراثي للفرد الذي يحمل الصفة السائدة مجهولة النقاوة	
	ص ١١١	البولزاي / هو نتوء صغير ينشأ بجدار المبيض من طريق انقسام خلية واحدة او خليتين من خلايا حشوية تدعى اعلقة البويضة وتتكون هذه الخلية من قاعدة البولزاي ومحيط احاطة تامة بالبويضة باستثناء منطقة القمة حيث يترك منفذ صغير جداً يدعى فتحة النقير . وهو يمثل بداية نمو البويضة .	

Website: iraqedu.net Telegram: @SadsHelp Bot: @EDIRQBot

رقم الصفحة ٥

الاجوبة النموذجية للدراسة الاعدادية للعام الدراسي ٢٠١٩ / ٢٠٢٠

الدور / التمهيدي

اسم المادة / الأحياء

الفرع / العلمي / الاحيائي

جواب السؤال (الثاني) فرع (م)

السؤال	الصفحة	الجواب النموذجي	الدرجة
	ص ١٢٧	الخلايا البينية / هي خلايا غير متمايزة يمكن أن تتمايز لتكوين أي نوع من الخلايا عند الحاجة توجد في جدار جسم الهايدرا.	
	ص ٧٤	المخاطين للغضروفي / هو مركب يوجد في المادة بين الكلوية للغضروف وهو مسؤول عن صلادة النسيج الغضروفي. حيث يجعله مقاوماً للضغط والشد	

Website: iraqedu.net Telegram: @SadsHelp Bot: @EDIRQBot

٦
رقم الصفحة

الاجوبة النموذجية للدراسة الاعدادية للعام الدراسي ٢٠١٩ / ٢٠٢٠

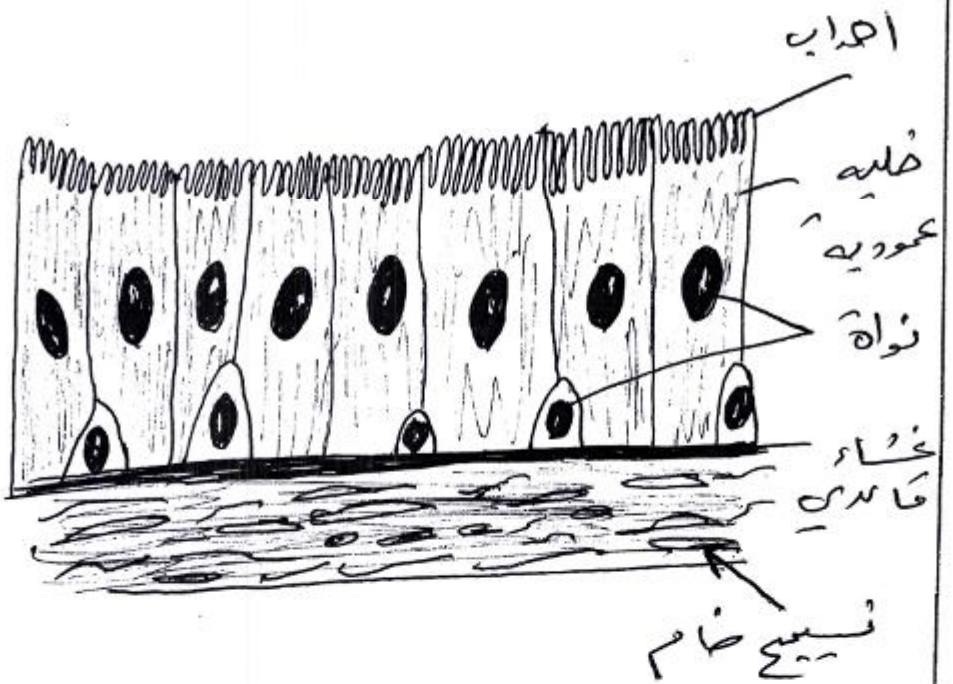
الدور / الجهد

اسم المادة / الاحياء

الفرع / العلمي الادبي

جواب السؤال (الثاني) فرع (ب-١)

السؤال	الصفحة	الجواب النموذجي	الدرجة
الثاني	ص ٦١		٥



(نسيج ظهاري عمودي مطبق كاذب) شكل (2-10) ص ٦١ ٥

ملاحظة: يمنح الطالب أربع عشرة درجة

Website: iraqedu.net Telegram: @SadsHelp Bot: @EDIRQBot

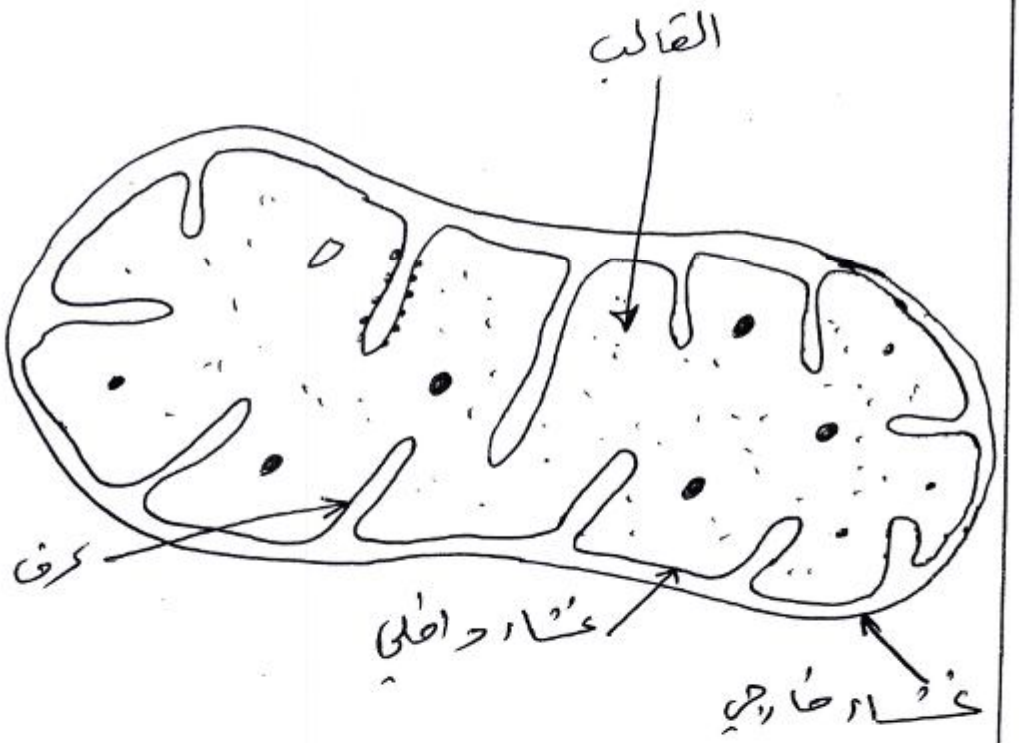
الاجوبة النموذجية للدراسة الاعدادية للعام الدراسي ٢٠١٩ / ٢٠٢٠

الدور / الجمهوري

الفرع / العلمي الأدبي

اسم المادة / ..... صباح .....

جواب السؤال (الثاني) فرع (ب / ٧)

السؤال	الصفحة	الجواب النموذجي	الدرجة
السؤال الثاني	ص ١٧	 تركيب البنسلين كوند ريا شكل (١-١٥) ص ١٧	٥ درجات لرسم ٤ درجات والتسمية ٤ درجات

Website: iraqedu.net Telegram: @SadsHelp Bot: @EDIRQBot

رقم الصفحة ٨

الاجوبة النموذجية للدراسة الاعدادية للعام الدراسي ٢٠١٩ / ٢٠٢٠

الدور / الثاني

الفرع / العلمي / الاحيائي

اسم المادة / الاحياء

جواب السؤال (الثالث) فرع (م)

السؤال	الصفحة	الجواب النموذجي	الدرجة
		املاء الفراغات لاربع من العبارات الاتية	٨ درجات لكل نقطة درجتان
١	ص ١٠٤	ا- انثريديا ، اركيكونيا	
	ص ٥٦	ب- الالياف ، الخلايا الصخرية (الحجرية)	
	ص ٧٦	ج- الخلايا اللهبية ، الخلية الوحيدة	
	ص ١٠٨	د- الملتك ، الخيط او الحامل الاسطوانية الرطيع	
	ص ١٢٢	ه- التطعيم بالبرعم ، التطعيم بالقلم (الشق)	

٢٠٢٠

Website: iraqedu.net Telegram: @SadsHelp Bot: @EDIRQBot

رقم الصفحة ٩

الاجوبة النموذجية للدراسة الاعدادية للعام الدراسي ٢٠١٩ / ٢٠٢٠

الدور / تجديدي

اسم المادة / الاحياء

الفرع / العلمي

جواب السؤال (الثالث) فرع (ب)

السؤال	الصفحة	الجواب النموذجي	الدرجة
		١- الطراز الوراثي لاربع هايات هي	
	ص١	١- نبات بزر لبا قصير الساق ⇐ tt (اوراق خرمنية صغيرة)	درجة لكل نقطة درجتان
	ص١٧	٢- شخص دمه O ⇐ ii	
	ص١١	٣- ماشية خيارية ⇐ $C^{R}C^{W}$	
	ص١٢	٤- فأر اصفر الجسم ⇐ Y_{y} لا Y_{y}	
	ص١٢	٥- ارنب ابيض ⇐ $C^{a}C^{a}$	

Website: iraqedu.net Telegram: @SadsHelp Bot: @EDIRQBot

Website: iraqedu.net Telegram: @SadsHelp Bot: @EDIRQBot

رقم الصفحة ١٠

الاجوبة النموذجية للدراسة الاعدادية للعام الدراسي ٢٠١٩ / ٢٠٢٠

الدور / الاول

اسم المادة / الاحياء

الفرع / العلمي / الاحياء

جواب السؤال (الثالث) فرع (ح)

السؤال	الصفحة	الجواب النموذجي	الدرجة
	ص٥٩	عدد انواع التشبيع الظاهري البسيط. ١- تشبيع ظهاري حرشفي بسيط ٢- تشبيع ظهاري كعبي بسيط ٣- تشبيع ظهاري عمودي بسيط ٤- تشبيع ظهاري عمودي طبقة كاذبة	٤ درجات

Website: iraqedu.net Telegram: @SadsHelp Bot: @EDIRQBot

رقم الصفحة ١١

الاجوبة النموذجية للدراسة الاعدادية للعام الدراسي ٢٠١٩ / ٢٠٢٠

اسم المادة / أحياء ١

الدور / الترصيدي

الفرع / العلمي / احياء

جواب السؤال (١ الرابع) فرع (أ)

السؤال	الصفحة	الجواب النموذجي	الدرجة
	صفحة ٥١	نرمز للاليل المسؤول عن العامل الريسي الموجب بالرمز Rh نرمز للاليل المسؤول عن العامل الريسي السالب بالرمز rh	
		الاستنتاج // بما ان والد الرجل ذو Rh^+ ووالدته $R\bar{h}$ اذن الرجل هجين Rhrh وبما ان المرأة ذات Rh^+ ووالدها $R\bar{h}$ اذن هي ايضاً هجينة Rhrh	١٢ درجة الرموز درجتان الاستنتاج درجتان
		$\frac{\text{هجين } Rh^+ \text{ ♂} \quad X \quad \text{هجين } Rh^+ \text{ ♀}}{Rhrh \qquad\qquad Rhrh}$ P_1 G_1 (Rh)(rh) (Rh)(rh) F_1 RhRh , Rhrh , Rhrh , rhrh $Rh^+ : R\bar{h}$ 3 : 1	التقريب درجتان الانتشار الافتراضي
		على ان جميع الاولاد سوف لا يصابون بهذا المرض (البرقان)	درجتان

iraqedu

Website: iraqedu.net Telegram: @SadsHelp Bot: @EDIRQBot

١٢
رقم الصفحة

الاجوبة النموذجية للدراسة الاعدادية للعام الدراسي ٢٠١٩ / ٢٠٢٠

الدور / الثاني

اسم المادة / الأحياء

الفرع / العلمي / الأحياء

جواب السؤال (الرابع) فرع (ب)

السؤال	الصفحة	الجواب النموذجي	الدرجة
٤/ب		ما وظيفة اي اثنين مما يأتي :	٨ درجات
	ص٤٤	١- البقوليات : لها دور مهم في تكوين الرايبوسومات لانها تضم تكوين البروتينات ص٢٤	لكل فقرة درجتان
	ص١٤٥	٢- البيض الطازج : تكوين مواد ذات طبيعة اذعية لكل من تجلل اغشية البيضة عند التقاء النطفة بالبيضة لغرض تسهيل مرور النطفة الى سطح البيضة . ص١٤٥	
	ص١٨	٣- البذار السليمة بدية للانبات : تشكل مراكز لتحول سكر الكلوكوز الى سكريات متعددة مثل النشا والى الكوكو وبروتينات ص١٨	
	ص١٧	٤- بعض الكولجي في الخلايا النباتية : تقوم ببناء السليلوز وبعض مكونات الجدار الخلوي . ص١٧	
	ص٥٥	٥- السيتوبلازم الكولنكيمي : وظيفة الدعم والتقوية ص٥٥	

Website: iraqedu.net Telegram: @SadsHelp Bot: @EDIRQBot

الاجوبة النموذجية للدراسة الاعدادية للعام الدراسي ٢٠١٩ / ٢٠٢٠

الدور / التمهيدي

اسم المادة / الأحياء

الفرع / العلمي / الأحياء

جواب السؤال (الخامس) فرع (م)

السؤال	الصفحة	الجواب النموذجي	الدرجة
	٧٧ ص	قارن بين (اجب عن اثنين) البلازما — الكف ١- سائل مائي يمكن الحصول عليه بترشيح الدم ويكون بلون اصفر فاتح ويمثل المادة البينية لنسيج الدم — ١- سائل يتجمع من انسجة ويرجع الى مجرى الدم بواسطة اوعية لمفاوية وهو نسيج ضام متخصص ٢- تركيب ما ٩٠٪ ماء و ١٠٪ مواد صلبة مثل البروتينات والهورمونات والانزيمات والاملاح المعدنية والكلوكوز — ٢- يشبه البلازما في التركيب الا ان محتواه البروتيني أقل ٣- عملية التخثر سريع — ٣- عملية التخثر بطأ ٤- تخثره تكون صلبة — ٤- تخثره تكون لينة ٥- لا يحتوي — ٥- يحتوي على خلايا ملقية بالدرجة الرئيسية ملاحظة / يكتفى بذكر ثلاث نقاط فقط	٦ درجات

Website: iraqedu.net Telegram: @SadsHelp Bot: @EDIRQBot

Website: iraqedu.net Telegram: @SadsHelp Bot: @EDIRQBot

رقم الصفحة

الاجوبة النموذجية للدراسة الاعدادية للعام الدراسي ٢٠١٩ / ٢٠٢٠

اسم المادة / الاحياء

الدور / التمهيدي

الفرع / العلمي / الاحيائي

جواب السؤال (الاساسي) فرع (م)

السؤال	الصفحة	الجواب النموذجي		الدرجة
		التخمر الكحولي	التخمر اللبني	٦ درجات
		١- يحصل في الخميرة والنباتات الخضر عند غياب الاوكسجين او نقصه وفي بعض انواع البكتريا	١- يحصل في بعض انواع البكتريا والعضلات	
		٢- يحصل اكسدة للحامض البايروفي بنزع CO_2 محولا الى اسيتالديهايد	٢- لا يحصل اكسدة الحامض البايروفي وانما اختزال	
		٣- يتم اختزال الاسيتالديهايد بواسطة الهايدروجين الناتج من التحلل السكري	٣- يتم اختزال الحامض البايروفي بواسطة الهايدروجين الناتج من التحلل السكري	
		٤- نواتجه > كحول اثيلي + 2ATP	٤- نواتجه > حامض لبني + 2ATP	
		٥- تنفس لاهوائي حيث عند غياب او نقص الاوكسجين	٥- كذلك	

يتبع ←

Website: iraqedu.net Telegram: @SadsHelp Bot: @EDIRQBot

الاجوبة النموذجية للدراسة الاعدادية للعام الدراسي ٢٠١٩ / ٢٠٢٠

الدور / الممهدي

اسم المادة / الأحياء

الفرع / العلمي / الأحياء

جواب السؤال (الخامس) فرع (أ)

السؤال	الصفحة	الجواب النموذجي	الدرجة

التخمر الكحولي

تحلل سكري
$C_6H_{12}O_6$ ← سكر الكلوكوز

$2CH_3-\overset{O}{\overset{\|}{C}}-COOH$ حامض بايروفي ← (أكسدة CO_2)

$2CH_3-\overset{O}{\overset{\|}{C}}-H$ اسيتالديهايد ← (اختزال $2[H]$ الناتج من تحلل سكري)

$2CH_3CH_2OH + 2ATP$ كحول اثيلي + طاقة

التخمر اللبني

تحلل سكري
$C_6H_{12}O_6$ ← سكر كلوكوز

$2CH_3-\overset{O}{\overset{\|}{C}}-COOH$ حامض بايروفي ← (اختزال $2[H]$)

$2CH_3-\overset{OH}{CH}-COOH + 2ATP$ حامض لبني

ملاحظة / يكتفى بذكر ثلاث نقاط

Website: iraqedu.net Telegram: @SadsHelp Bot: @EDIRQBot

الاجوبة النموذجية للدراسة الاعدادية للعام الدراسي ٢٠١٩ / ٢٠٢٠

الدور / الثاني

اسم المادة / ..الاحياء.....

الفرع / العلمي / الادبي

جواب السؤال (ثامن) فرع (ب / ج)

السؤال	الصفحة	الجواب النموذجي		الدرجة
		السيادة التامة	السيادة غير التامة	٦ درجات
		١- وراثة منديلية	١- وراثة لامندلية	
		٢- افراد الجيل الاول F_1 تشبه احد الابوين	٢- افراد الجيل الاول F_1 لاتشبه احد الابوين (وسط بينهما)	
		٣- في الجيل الثاني النسبة المظهرية ٣ : ١ لاتساوي مع النسبة الوراثية ١ : ٢ : ١	٣- في الجيل الثاني النسبة المظهرية تساوي النسبة الوراثية هي ١ : ٢ : ١	
		٤- مثال : لون الازهار في نبات البزاليا	٤- مثال : لون الازهار في هندي البحر	
		٥- توجد سيادة لاحد العاملين على الاخر الاحمر R سائد على الابيض r	٥- لا توجد سيادة لاحد العاملين على الاخر الاحمر R الابيض $\bar{R}$	

ملاحظة / تكتفي بذكر ثلاث نقاط

Website: iraqedu.net Telegram: @SadsHelp Bot: @EDIRQBot

رقم الصفحة ١٧

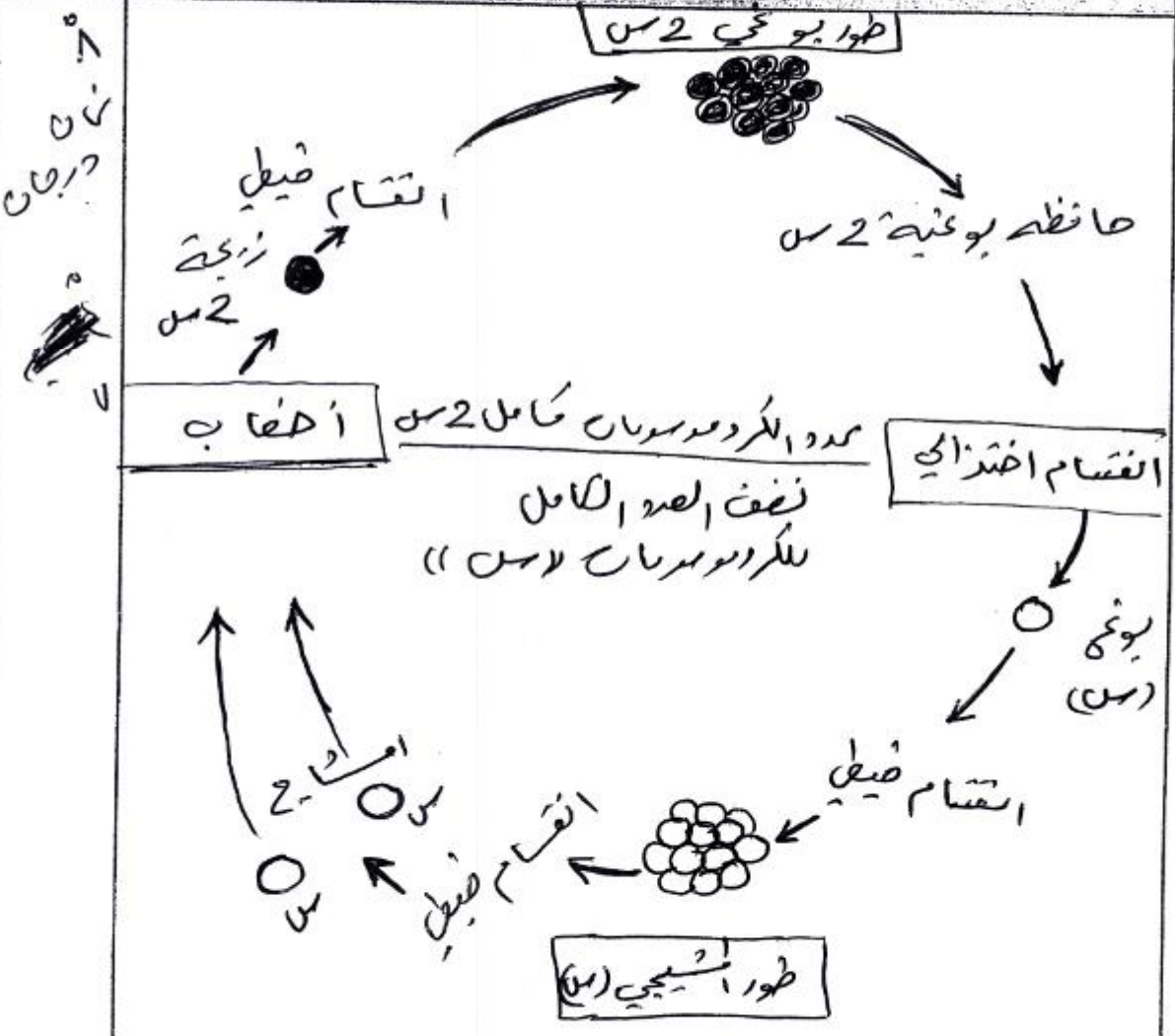
الاجوبة النموذجية للدراسة الاعدادية للعام الدراسي ٢٠١٩ / ٢٠٢٠

الدور / الخامس

اسم المادة / الاحياء

الفرع / العلمي الادبي

جواب السؤال (أ س) فرع (ب)

السؤال	الصفحة	الجواب النموذجي	الدرجة
أ س	103		٨

تعاقب الاجيال في نبات السيكاس شكل (ح-١١) ص 103

٢ نقاط لكل صحيح

Website: iraqedu.net Telegram: @SadsHelp Bot: @EDIRQBot

الاجوبة النموذجية للدراسة الاعدادية للعام الدراسي ٢٠١٩ / ٢٠٢٠

الدور / التمهيدي

اسم المادة / ...الاحياء.....

الفرع / العلمي الادبي

جواب السؤال (البارحة) فرع (م)

السؤال	الصفحة	الجواب النموذجي	الدرجة
البارحة ثم م	123 حر	ما خطوات الزراعة النسيجية للنخيل ؟ (١) تفصل احد الفسائل من نبات النخيل الام ويفضل اختيار فسيلة نشطة النمو . (٢) تستخلص العقة الناضجة للفسيلة وهذا يتطلب خراوف تقصيم جيدة حداً سنعاً كحول اثيلي ثم تجفف لتستخلص (٣) تقطع العقة الناضجة الى قطع صغيرة بشرط أن تكون حاوية على خلايا حية نشطة (٤) تزرع الانسجة الحية في اوساط غذائية خاصة تحوي مادة غذائية مناسبة وتتم الزراعة في خراوف تقصيم حول داخل المزارع النسيجية كما يراعى فيها ان تكون درجة حرارة ونسبة الرطوبة ملائمة (٥) تنقل الى بيت زجاجي خاص وتتم رعايتها في خراوف تقصيم جيدة لحين وصولها الى مرحلة تكون فيها جاهزة للاستزراع في البيئة الطبيعية .	١٠ درجات للاول نقطة درجتان ٥

Website: iraqedu.net Telegram: @SadsHelp Bot: @EDIRQBot

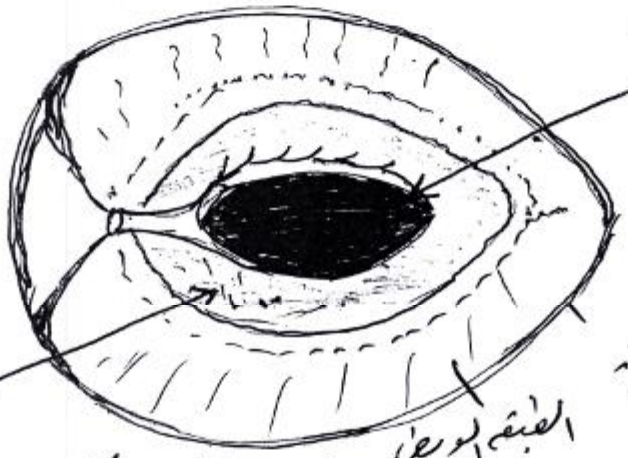
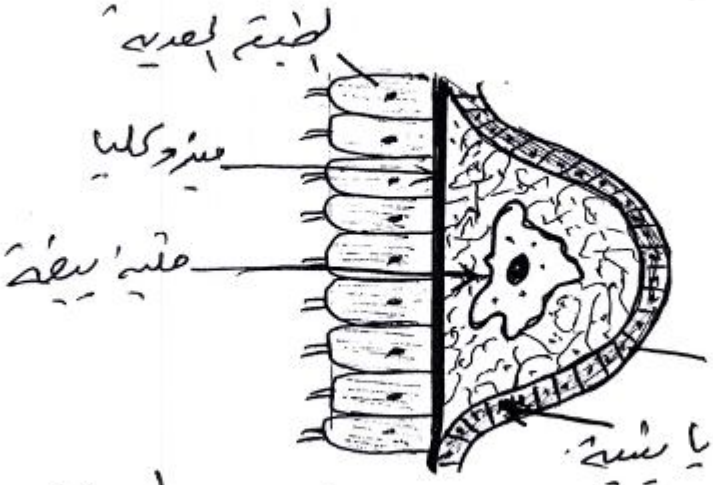
الاجوبة النموذجية للدراسة الاعدادية للعام الدراسي ٢٠١٩ / ٢٠٢٠

الدور / الرابع

اسم المادة / الاحياء

الفرع / العلمي الاحياء

جواب السؤال (الاول) فرع (ب ١ / ٢) الاجابة عن واحد فقط

السؤال	الصفحة	الجواب النموذجي	الدرجة
الاول ثالثا ب/٢	117	اما ←  تذكير البذرة شكل (٢-٢١) ص ١١٧	٤ درجات للشكل ٣ درجات وان شير ٣
الاول ثالثا ب/٢		او ←  تذكير البيض في الحيوانات شكل (٢-٢٣) ص ١٢٧	٤ درجات للشكل ٣ وان شير ٣

ملاحظة تقبل الاجابة عن واحد فقط

ملاحظة الاجابة عن واحد فقط

Website: iraqedu.net Telegram: @SadsHelp Bot: @EDIRQBot

٧٠
رقم الصفحة

الاجوبة النموذجية للدراسة الاعدادية للعام الدراسي ٢٠١٩ / ٢٠٢٠

الدور / الدور الثاني

اسم المادة / الاحياء

الفرع / العلمي / الادبي

جواب السؤال (الاول) فرع (ج)

السؤال	الصفحة	الجواب النموذجي	الدرجة
الاول ثالثاً ج		اكمل الاجابة الصحيحة مما بين الاقواس لكل مما يأتي ١- البلعمة (او الاكل الخلوي) ص٢٢ ٢- الطور (البيتي) ص٢٥ ٣- شبكي ص١٠٨ ٤- الساء ص٢٨	٦ درجة لكل فقرة صحيحة ٥