Website: iraqedu.net Telegram: @SadsHelp Bot: @EDIRQBot

اسم الطالب : الرقم الامتحاني :

ملاحظة : أجب عن خمسة أسئلة فقط ، ولكل سؤال ٢٠ درجة .

س١ : أ) املأ الفراغات بما يناسبها (لأربع) من العبارات الآتية : (٨ درجات)

١) الثالوس الأولي تركيب قلبي الشكل يحمل ..... وهي حافظة مشيجية أنثوية و..... وهي حافظة مشيجية ذكرية .
٢) يوجد نوعان من الخلايا السكلرنكيمية هي ..... و..... .
٣) يتركب جدار الخلية من مادة ..... في الخلايا النباتية الفتية ويتشحن بإضافة ..... في الخلايا المتقدمة في العمر .
٤) تساهم الأنسجة الضامة بوظيفة دفاعية للجسم لاحتوائها على ..... و ..... .
٥) في الدورة المبيضية لأنثى الانسان تنتج هرمونات جنسية أنثوية هي ..... و..... .

ب) ما موقع كل مما يأتي ؟ (لثلاثة فقط) (٦ درجات)
النواتان القطبيتان ، الجزء المركزي ، الجسيمات الحالة ، النسيج المخاطاني .

جـ) ارسم مع التأشير : (تركيب الغشاء البلازمي في الخلية حقيقية النواة) (٦ درجات)

س١ : أ) فسّر (علل) الجمل التالية تفسيراً علمياً : (لأربع فقط) (١٢ درجة)
١) التلقيح الخلطي أكثر أهمية من التلقيح الذاتي .
٢) يمتاز العظم بصلابته .
٣) نسبة نجاح تجميد البويضة أقل من نسبة نجاح تجميد الأجنة .
٤) اختيار (مندل) لنبات البزاليا في تجاربه .
٥) الجسيم الطرفي في نطفة الإنسان ضروري لعملية الاخصاب .

ب) ما المجموعه الكروموسومية لكل مما يأتي ؟ (٤ درجات)
الجسم القطبي الأول ، الطور المشيجي في النبات ، النواة الأولية الذكرية ، الأبواغ الكبيرة .

جـ) اشرح تأثير الكحول على الجنين . (٤ درجات)

س٣ : أ) قارن بين : (اثنين فقط) (٨ درجات)
١) خصى ومبايض الضفدع . ٢) التخمر الكحولي والتخمر اللبني .
٣) الصفيحات الدموية والخلايا الخثرية .

ب) ما وظيفة أو أهمية (أربعة) مما يأتي ؟ (٨ درجات)
المتك ، التصالبات ، إنزيم بلمرة DNA ، أوعية الخشب ، البلاستيدات عديمة اللون .

جـ) ما النظريات التي تفسر حركة الكروموسومات نحو قطبي الخلية المتعاكسين ؟ (٤ درجات)

س٤ : أ) عرف (أربعة) مما يأتي : (١٢ درجة)
النقل الفعال ، نظرية التكوين التراكمي ، قانون التوزيع الحر ، الجويزاء ، المجس .

ب) ارسم مع التأشير : (التكاثر اللاجنسي في البكتريا – الإنشطار الثنائي) . (٨ درجات)

س٥ : أ) أرنب رمادي طويل الشعر ضُرّب بأنثى فضية قصيرة الشعر فأنجبا عدد من الأرانب من بينهم أرنب أمهق طويل الشعر وآخر رمادي قصير الشعر ، ما الطرز الوراثية للأباء والأبناء ؟ وما نوع الوراثة للصفتين ؟ علما أنّ مورثة الشعر الطويل (T) سائدة . (١٢ درجة)

ب) ما منشأ كل مما يأتي ؟ (لأربعة فقط) (٨ درجات)
القناة القاذفة في الحشرات ، الرايبوسومات ، نواة الخلية المولدة ، الدم ، الكليسر الديهايد المفسفر(3C) .

س٦ : أ) ما نوع النسيج في كل مما يأتي ؟ (لأربعة فقط) (٨ درجات)
الرغامي ، الرابط القفوي ، بطانة الإحليل ، بطانة القنوات الكبيرة للغدد اللعابية ، الجزء القاعدي من نصل الورقة .

ب) أجب عن (واحد) مما يأتي : (٤ درجات)
١) عدّد أنواع طفرات الإستبدال .
٢) ما هي أحداث طور الأفراز من الدورة الرحمية في الأنسان ؟

جـ) ما مميزات كل مما يأتي ؟ (لأربعة فقط) (٨ درجات)
شكل الليف العضلي في العضلة الملساء ، نواة الأرومة الليفية ، أغشية شبه نفاذة ، فروع المبيض في الحشرات ، مرحلة الجنين الاولي في جنين نبات من ذوات الفلقتين .

@sadshelp



"شبكة تعليمية تهدف الى توفير جميع الاحتياجات الدراسية للطلاب في جميع انحاء العراق"

iraqedu.net @sadshelp

قناة تعليمية تقدم لكم

- الكتب المنهجية
- الملازم الدراسية
- الملازم الوزارية
- المراجعات المركزة
- الامتحانات - الاختبارات
- الملخصات
- الاخبار الموثوقة
- التحفيزات - النصائح
- نسخ الأسئلة الوزارية مع الأجوبة النموذجية

امسح الباركود من هنا
للانضمام الينا ليصلك
كل جديد

iraqedu.net @sadshelp

@sadshelp

شبكة المساعد
@SadsHelp

شـبكة تعليمية تهدف الى توفير جميـع الاحتياجات
الدراسـية للـطلاب فـي جميـع انحـاء العـراق

iraqedu.net @sadshelp

بوت المساعد التعليمي

الكتب المنهجية - الملازم الدراسة - الملازم الوزارية - المراجعات المركزة
نسخ الاسئلة الوزارية مع الاجوبة النموذجية

Bot: @EDIRQBot

Website: iraqedu.net Telegram: @SadsHelp Bot: @EDIRQBot

رقم الصفحة ١

مركز الامتحانات الدراسية الاعدادية

الاجوبة النموذجية للدراسة الاعدادية للعام الدراسي ٢٠٢٤ / ٢٠٢٥ الدور / الثالث

اسم المادة / الأحياء الفرع / العلمي - الاول

جواب السؤال (الاول) فرع (٢)

السؤال	الصفحة	الجواب النموذجي	الدرجة
		أملأ الفراغات بما يناسبها (الاربع) من العبارات	٨ درجات لكل فرع درجة واحدة
①	١٠٦	الارخبيكونيا و الانثريديا	
٢-	٥٦	الالياف و الخلايا الصخرية / الحجرية	
③	١٤	السليلوز و اللكتين / الكشين	
٤-	٦٦	الخلية البلازمية و البلعم الكبير	
٥-	١٢١	البروجيترون و الاستروجين / الهورمون	

ملاحظة:-

لا يحق لطالب التقديم والتأخير في النقاط ① و ②

توقيع أعضاء اللجنة

Website: iraqedu.net Telegram: @SadsHelp Bot: @EDIRQBot

رقم الصفحة ٦

الاجوبة النموذجية للدراسة الاعدادية للعام الدراسي ٢٠٢٤ / ٢٠٢٥ الدور / الثالث

اسم المادة / الأحياء الفرع / العلمي - الاول

جواب السؤال (الاول) فرع (ب)

السؤال	الصفحة	الجواب النموذجي	الدرجة
		ما موضع كل مما يأتي (للاول فقط)	
١-	١١٢	الكروماتين العصبيتان ← مركز أو وسط البكس الجنيني.	٦ درجات درجتان لكل نقطة
٢-	٢٥	الجزء المركزي ← الكروموسومات أو بين الكروماتيدات الشقيقة	
٣-	١٩	الكيسات الحالة ← في سايتوبلازم جميع أنواع الخلايا تقريباً وبشكل خاص الخلايا التي تقوم بعملية البلعمة أو في كريات الدم البيض المعدلة	
٤-	٦٩	النسيج المحاطي ← الحبل السري	
		ملاحظة :- بالنسبة للنقطة الاولى في حال ذكر الطالب في المبيض او الوعاء يعتبر الاجابة صحيحة - بالنسبة للنقطة الثالثة يكتفي بنقطة واحدة فقط	

توقيع اعضاء اللجنة

Website: iraqedu.net Telegram: @SadsHelp Bot: @EDIRQBot

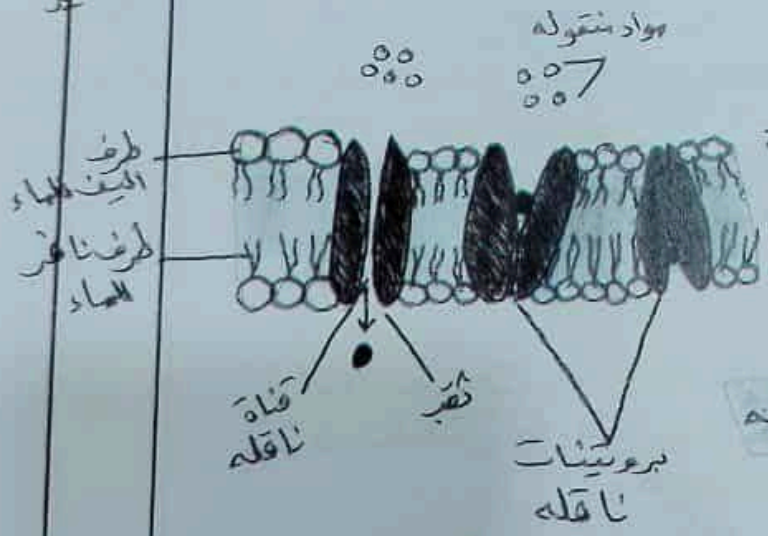
مديرية الدراسة الاعدادية

الاجوبة النموذجية للدراسة الاعدادية للعام الدراسي ٢٠٢٤ / ٢٠٢٥ الدور / الثالث

اسم المادة / الأحياء الفرع / العلمي - الاول

جواب السؤال (الاول) فرع (ج)

السؤال	الصفحة	الجواب النموذجي	الدرجة
ثانياً		ج/ ارسم مع التأشير (تركيب الغشاء البلازمي في الخلية حقيقية النواة)	٦ درجات ٣ رسم ٣ تأشير



ملاحظه / يكتفي المصحح بثلاث تأشيرات فقط

توقيع أعضاء اللجنة

Website: iraqedu.net Telegram: @SadsHelp Bot: @EDIRQBot

مركز الخلاصة الدراسية الاعلامية

الاجوبة النموذجية للدراسة الاعدادية للعام الدراسي ٢٠٢٤ / ٢٠٢٥ الدور / الثالث

اسم المادة / الأحياء الفرع / العلمي - الاول

جواب السؤال (الثاني) فرع (٢)

السؤال	الصفحة	الجواب النموذجي	الدرجة
س٢	ص١١٤	كما فسر (علل) الجمل التالية تفسيراً علمياً: (لاربع فقط) ① حيث تكون الثمار والبذور الناتجه اكبر حجماً واكثر عدداً واسرع نمواً.	٤ درجه لكل تعليل ٣ درجات
	ص١٣٧	② وذلك لاحتواء مادته بين الخلويه على نسبه كبيره من املاح الكالسيوم مثل فوسفات الكالسيوم وكاربونات الكالسيوم (املاح لاعضويه) اضافه الى الالياف البيض.	
	ص١٥٩	③ لان التجميد قد يؤثر على الكروموسومات البيضه.	
	ص١٧٦	④ لان نبات البزاليا يتسم بتغايره الوراثي وقدرته على النمو بسهوله وقابليته للتهجين بصوره اصطناعيه.	
	ص١٤٦	⑤ لانه يكون مواد ذات طبيعه انزيميه تعمل على تحلل انسجة البيضه عند منطقه التقاء النطفه بالبيضه وبذلك تسهل مرور النطفه على سطح البيضه.	

توقيع أعضاء اللجنة

Website: iraqedu.net Telegram: @SadsHelp Bot: @EDIRQBot

مركز الدراسة الاعدادية

الاجوبة النموذجية للدراسة الاعدادية للعام الدراسي ٢٠٢٤ / ٢٠٢٥

اسم المادة / الأحياء الدور / الثالث

الفرع / العلمي - الاول

جواب السؤال (الثاني) فرع (ب)

السؤال	الصفحة	الجواب النموذجي	الدرجة
س		ب/ ما المصوغه الكروموسومية لكل مما يأتي:	٤ درجات لكل نقطه درجه واحده بدون تجزئ
	ص٩	① الجسم القطبي الاول / س	
	ص١٠	② الطور المشيجي في النبات / س	
	ص٩	③ النواة الاولية الذكرية / س	
	ص١١	④ الابواغ الكبيره / س	

توقيع أعضاء اللجنة

Website: iraqedu.net Telegram: @SadsHelp Bot: @EDIRQBot

رقم الصفحة ٦

المديرية العامة للمناهج

الاجوبة النموذجية للدراسة الاعدادية للعام الدراسي ٢٠٢٤ / ٢٠٢٥ الدور / الثالث

اسم المادة / الأحياء الفرع / العلمي - الاول

جواب السؤال (الثاني) فرع (ج)

السؤال	الصفحة	الجواب النموذجي	الدرجة
س٢	ص١٧٤	ج/ أشرح تأثير الكحول على الجنين . الكحول يؤثر في الجنين وقد يسبب له الخلل العصبي والتشوهات الجسميه خصوصاً في الوجه اضافه الى حدوث اضطرابات في السلوك ويسبب الكحول متلازمه الكحول الجنيني التي تظهر في المجتمعات الاوربيه .	٤ درجات

توقيع أعضاء اللجنة

Website: iraqedu.net Telegram: @SadsHelp Bot: @EDIRQBot

رقم الصفحة ٧

مركز امتحانات الدراسة الاعدادية

الاجوبة النموذجية للدراسة الاعدادية للعام الدراسي ٢٠٢٤ / ٢٠٢٥ الدور / الثالث

اسم المادة / الأحياء الفرع / العلمي - الاول

جواب السؤال (سكن) فرع (أ)

السؤال	الصفحة	الجواب النموذجي		الدرجة
الثالث أ	١٧ ص	٢- قارن بين اثنين مما يأتي		الفرع ٣ درجات لكل فقرة ١/٢ درجة ملاحظة يكتفي بالمجموع بتقديس فقط
		مبايض الضفدع	مبيض الفقدع	
		١- زوج من المبايض يقعان قرب الكلية	١- زوج من المبيض ملتصقة بالكلية	
		٢- تكون بشكل تركيب كيسي غير منتظم يظهر بشكل كيس متعدد الفصوص	٢- تكون بشكل تركيب بيضوي متطاول	
		٣- لونها رصاصي مسود	٣- لونها اصفر فاتح	
		٤- ترتبط بجدار الجسم الداخلي بواسطة سرائر المبيض	٤- ترتبط بالجدار الداخلي للجسم بواسطة سرائر الخصية	
		٥- تنشأ البيوض من ابطانة الظهارية الجرثومية البطنة للمبيض من خلال عملية تكوين البيوض .	٥- تحوي الخصية على نبيبات منوية ملتوية ذات بطانة ظهارية تكون مسؤولة عن نشوء النطف بعملية تكوين النطف .	
		٦- يوجد في النهاية الامامية للمبيض اجسام كتلك الموجودة في الذكر .	٦- يوجد قرب النهاية الامامية للخصية بروزات اجهيزة الشكل تدعى بالاجسام الدهنية يستخلص الجيوان في اثناء الخصي فلا تعمل	
			البالغة	

توقيع اعضاء اللجنة

Website: iraqedu.net Telegram: @SadsHelp Bot: @EDIRQBot

الاجوبة النموذجية للدراسة الاعدادية للعام الدراسي ٢٠٢٤ / ٢٠٢٥

اسم المادة / الأحياء الدور / الثالث

الفرع / العلمي - الاول

جواب السؤال (لكن) فرع (أ)

السؤال	الصفحة	الجواب النموذجي		الدرجة
		الضفيحات الدموية	الخلايا الخثرية	
الثالث مقارنة ج	أ ١ ٧٧ ص	١- اقراص كروية او بيضوية	١- خلايا مغزلية الشكل	اربع درجات ولاخطاء يكتفى بتصحيح بنقطتين فقط
		٢- صغيرة الحجم (قطرها ٢-٤ مايكرون)	٢- اكبر حجماً من الضفيحات الدموية	
		٣- توجد في دم الثدييات	٣- توجد في دم الفقريات الأولية في سلم التطور مثل الطيور والبرمائيات	
		٤- عديمة اللون وخالية من النواة	٤- تحتوي على نواة	
		٥- وظيفة الضفيحات الدموية هو تحرير انزيم الثرومبوبلاستين الذي يلعب دوراً في تخثر الدم ، وتحتوي على السيروتونين الذي يساعد في تقلص الأوعية الدموية	٥- يعتقد انها تشابه الضفيحات الدموية في وظيفتها	

توقيع أعضاء اللجنة

Website: iraqedu.net Telegram: @SadsHelp Bot: @EDIRQBot

الاجوبة النموذجية للدراسة الاعدادية للعام الدراسي ٢٠٢٤ / ٢٠٢٥

اسم المادة / الأحياء الدور / الثالث

الفرع / العلمي - الاول

جواب السؤال (الثالث) فرع (ب)

السؤال	الصفحة	الجواب النموذجي	الدرجة
الثالث	ص 59	ب/ ما وظيفة او اهمية (اربعة) مما يأتي 1- التلقيح ← يحتوي على حبوب اللقاح	٨ درجات لكل فقرة درجتان ملاحظة يكتفي المصحح بذكر وظيفة واحدة لكل تركيب
	ص 40	2- التعالبات ← تمثل مواقع لتبادل قطع الكروماتيدات غير الشقيقة بين الكروموسومين المتماثلين - وتمثل التعالبات موقع تبادل مواقع الوراثات بين الكروموسومين المتماثلين	
	ص 217	3- انزيم بلمرة الـ DNA ← اضافة نيوكليوتيدات متممة موجودة داخل النواة الى كل من السلسلتين الاصليتين	
		b- تقوم انزيمات بلمرة الـ DNA بانهاء عملية التضاعف	
		c- يقوم انزيم بلمرة الـ DNA بتصحيح الخطأ اثناء تضاعف الـ DNA	
	ص 58	4- اوعية الخشب ← تقوم بنقل الماء والمعادن داخل جسم النبات	
	ص 18	5- البلاستيدات عديمة اللون ← تشمل مراكز تحويل سكر الكلوكوز الى سكريات متعددة مثل النشاء والى شحوم وبروتينات.	

توقيع اعضاء اللجنة

Website: iraqedu.net Telegram: @SadsHelp Bot: @EDIRQBot

المديرية العامة للمناهج

الاجوبة النموذجية للدراسة الاعدادية للعام الدراسي ٢٠٢٤ / ٢٠٢٥

اسم المادة / الأحياء الدور / الثالث

الفرع / العلمي - الاول

جواب السؤال (الثالث) فرع (جـ)

السؤال	الصفحة	الجواب النموذجي	الدرجة
٣ الفرع جـ	ص ٢٥	جـ / ما النظريات التي تفسر حركة الكروموسومات نحو قطبي الخلية المتعاكسين ١- يعتقد ان خيوط المغزل تتقلص بوجود ATP وتسحب الكروموسومات نحو القطبين ٢- يعتقد ان خيوط المغزل تعمل بوضعها طريقاً تنزلق عليه الكروموسومات متجه نحو القطبين	٤ اربع درجات

توقيع أعضاء اللجنة

Website: iraqedu.net Telegram: @SadsHelp Bot: @EDIRQBot

مركز امتحان الدراسة الاعدادية

الاجوبة النموذجية للدراسة الاعدادية للعام الدراسي ٢٠٢٤ / ٢٠٢٥

اسم المادة / الأحياء الدور / الثالث

الفرع / العلمي - الاول

جواب السؤال (الرابع) فرع (أ)

السؤال	الصفحة	الجواب النموذجي	الدرجة
		عرف أربعة مما يأتي	
	ص ٢٩	١- النقل الفعال :- وهو ظاهرة أمتصاص الخلايا أحياناً بعض المواد من محيطها الخارجي بالرغم من أن تراكيز تلك المواد داخل الخلايا أعلى منها في الخارج ومن أجل أنجاز هذه العملية لابد من وجود مواد حاملة في غشاء الخلية يمكنها التحرك من الخارج الى الداخل وبالعكس وتحتاج هذه العملية الى صرف طاقة تستمد من ATP في الخلية الحية .	١٧ درجة سبعة عشر درجات لكل تعريف سبع ترك واحد
	ص ١٤٦	٢- نظرية التكوين التراكمي :- تفترض هذه النظرية ان الجنين يتكون من مادة عيسية داخل البيضة تعاني تغيرات متحولة تدريجياً الى جنين وتنسب هذه النظرية الى العالم وولف	
	ص ١٨١	٣- قانون التوزيع الحر :- وهو القانون الذي ينص على أن أزواج العوامل الوراثية المنفردة تتوزع بصورة مستقلة عن بعضها البعض وذلك خلال عملية تكوين الاعشاج ويعرف ايضاً بقانون مندل الثاني	

توقيع أعضاء اللجنة

Website: iraqedu.net Telegram: @SadsHelp Bot: @EDIRQBot

مديرية الدراسة الاعدادية

الاجوبة النموذجية للدراسة الاعدادية للعام الدراسي ٢٠٢٤ / ٢٠٢٥ الدور / الثالث

اسم المادة / الأحياء الفرع / العلمي - الاول

جواب السؤال (الرابع) فرع (أ)

السؤال	الصفحة	الجواب النموذجي	الدرجة
	ص ١١١	٤- الجويزاء :- وهو نتوء صغير متصل بجدار المبيض عن طريق الحبل السري ويكون محاطاً بغلاف أو غلافين من خلايا حشوية تدعى الغلفة البويضية، وتنمو هذه الغلفة من قاعدة الجويزاء وتحيط أحاطة تامة بالبويضة باستثناء منطقة القمة حيث تترك فتحة صغيرة جداً تدعى فتحة النقير (وتتولد داخل الجويزاء خلية معقدة تعرف بالخلية الام للابواغ الكبيرة وهي تمر بأنقسام اختزالي لتكوين أربعة أبواغ كبيرة أحادية المجموعة الكروموسومية مرتبة في صف واحد)	١٧ درجة مسسه ٣ درجات لكل تعريف مسسه ترك واحد
		ملاحظة :- في حال لم يذكر الطالب ما بين القوسين لا يحاسب على ذلك	
	ص ٢٢٢	٥- الجس :- هو جزيئة DNA أو RNA أحادية السلسلة ومعلمة بنظير الفسفور المشع ومكملة لتتابع الـ DNA المرغوب والمطلوب الكشف عنه، اذ انه نتيجة لارتباط الجس مع قطعة الـ DNA المكملة سيتكون حلزون مشع .	

توقيع أعضاء اللجنة



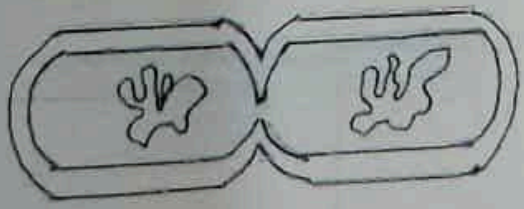

Website: iraqedu.net Telegram: @SadsHelp Bot: @EDIRQBot

رقم الصفحة ٤

الاجوبة النموذجية للدراسة الاعدادية للعام الدراسي ٢٠٢٤ / ٢٠٢٥ الدور / الثاني

اسم المادة / الأحياء الفرع / العلمي - الاول

جواب السؤال (الرابع) فرع (ب)

السؤال	الصفحة	الجواب النموذجي	الدرجة
	ص ٩٥	1 	٨ درجات ٥ درجات للرسم ٣ درجات للتأشيرات يكتفى بثلاث تأشيرات الصحيح
		2 	
		3 	
		4 	
		5 	
		تواقيع أعضاء اللجنة	

Website: iraqedu.net Telegram: @SadsHelp Bot: @EDIRQBot

١٥
رقم السؤال

الأجوبة النموذجية للدراسة الاعدادية للعام الدراسي ٢٠٢٤ / ٢٠٢٥

الدور / الثالث

اسم المادة / الأحياء

الفرع / العلمي - الاول

جواب السؤال (الخامس) فرع (أ)

السؤال	الصفحة	الجواب النموذجي	الدرجة
خامس	ص ١٩٩	الرموز :- ارنب رمادي : C انثى فضية : c^{ch} ارنب ابيض : c^{a} طويل الشعر : T قصير الشعر : t الاستنتاج والحل : ∵ تضريب ارنب رمادي بانثى فضية قد انتج ارنباً ابيضاً ∴ كلا الارنب الرمادي والانثى الفضية هجينا على الابيض ∵ الذكر طويل الشعر قد انتج مزوجاً قصير الشعر ∴ صفة طويل الشعر سائدة هجينة ويرمز لها Tt ، قصير الشعر tt ∴ الطراز الوراثي للارنب الرمادي طويل الشعر $Cc^{a}Tt$ الارنب الفضي قصير الشعر $c^{ch}c^{a}tt$ ارنب رمادي طويل الشعر (×) ارنب فضية قصيرة الشعر $Cc^{a}Tt$ (×) $c^{ch}c^{a}tt$ انتشار استقلالي P_1 $Cc^{a}Tt$ $c^{ch}c^{a}tt$ G_1 (CT) (Ct) ($c^{a}T$) ($c^{a}t$) ($c^{ch}t$) ($c^{a}t$) اخصاب	١٢ درجة ٤ درجة للرموز ٢ درجة للاستنتاج ٦ درجة للحل درجة تنسيق الورقة

توقيع أعضاء اللجنة

Website: iraqedu.net Telegram: @SadsHelp Bot: @EDIRQBot

الاجوبة النموذجية للدراسة الاعدادية للعام الدراسي ٢٠٢٤ / ٢٠٢٥

اسم المادة / الأحياء الدور / الثالث

الفرع / العلمي - الاول

جواب السؤال (الثاني مدس) فرع (أ)

السؤال	الصفحة	الجواب النموذجي	الدرجة
س٢	١٩٩ ص		

♀ \ ♂	C^{T}	C^{t}	C^{T}	C^{t}
$C^{ch}t$	$C^{ch}_{c}Tt$ رمادي طويل الشعر	$C^{ch}_{c}tt$ رمادي قصير الشعر	$C^{ch}_{c}Tt$ منغي طويل الشعر	$C^{ch}_{c}tt$ منغي قصير الشعر
$C^{g}t$	$C^{g}_{c}Tt$ رمادي طويل الشعر	$C^{g}_{c}tt$ رمادي قصير الشعر	$C^{g}_{c}Tt$ اسود طويل الشعر	$C^{g}_{c}tt$ اسود قصير الشعر

نوع الوراثة : طول الشعر : صفة متنحية (وراثة متنحية)
لون الفراء : الصفات متعددة

ملاحظة : لايحاسب الطالب اذا لم يذكر الطرز الظاهرية
اذا استخدم الطالب حرفاً غير حرف T, t
لصفة الطول لايحاسب شرط ان يستخدم الحرف
الكبير للصفة السائدة والصغير للصفة المتنحية

توقيع أعضاء اللجنة

Website: iraqedu.net Telegram: @SadsHelp Bot: @EDIRQBot

١٨
الى السادسا

الاجوبة النموذجية للدراسة الاعدادية للعام الدراسي ٢٠٢٤ / ٢٠٢٥ الدور / الثالث

اسم المادة / الأحياء الفرع / العلمي - الاول

جواب السؤال (السادس) فرع (م)

السؤال	الصفحة	الجواب النموذجي	الدرجة
٦		ما نوع التشيج في كل مما يأتي (الاجابة فقط)	٨ درجات لكل فقرة صحيحة
		التشيج / نوعه	
أ		١- البرنامج / عضروف نشمات	
ب		٢- البرايل القفوي / شبه ضام ليفي كثيف أو شبه ضام مرن كثيف	
ج		٣- بطانة الاحليل / شبه ظهاري حليفي عمودي	
د		٤- بطانة القنوات الكبيرة للغدد اللعابية / شبه ظهاري عمودي حليفي كاذب	
هـ		٥- الجزء الغائر من نصل الورقة / شبه مرستيمي شبكي	
		توقيع اعضاء اللجنة	

Website: iraqedu.net Telegram: @SadsHelp Bot: @EDIRQBot

مديرية الدراسة الاعدادية

الاجوبة النموذجية للدراسة الاعدادية للعام الدراسي ٢٠٢٤ / ٢٠٢٥ الدور / الثالث

اسم المادة / الأحياء الفرع / العلمي - الاول

جواب السؤال (السادس) فرع (ب)

السؤال	الصفحة	الجواب النموذجي	الدرجة
	ص٦٠	أجب عن (واحد) مما يأتي ١) عدد أنواع طفرات الاستبدال أ- الطفرة الاستبدالية المؤثرة ب- الطفرة الاستبدالية الكامنة (المحايدة) ج- الطفرة الاستبدالية الصامتة د- الطفرة الاستبدالية المتطفرة ٢) ما هي أحد اهم أدوار الأمراض الدورة الرحمية في الانسانة أ- يزداد إنتاج البروميترون بزيادة حجم الجسم الأصفر ب- زيادة سماكة في سمك الجدار الداخلي للرحم ج- زيادة الغدد الرحمية د- تنقبض الغدد لتطرح أفرازاتها هـ- طول الايام (15 - 28) ملاحظة/ اذا اختار الطالب النقطة الثانية فيكتفى بها وضع اربع نقاط فقط	٤ درجات لكل نقطة درجة واحدة

توقيع أعضاء اللجنة

Website: iraqedu.net Telegram: @SadsHelp Bot: @EDIRQBot

الإجابة النموذجية للدراسة الاعدادية للعام الدراسي ٢٠٢٤ / ٢٠٢٥

اسم المادة / الأحياء الدور / الثالث

الفرع / العلمي - الاول

جواب السؤال (السادس) فرع (ج)

السؤال	الصفحة	الجواب النموذجي	الدرجة
		ما معنى ان كل ما يأتي (لا ريقة فقط)	
	ص٨٠	(١) عكال البيض المضلي في المضلة المساء -	
		م- صفر لي مديت برنامج	
		ب- سبيل مثا الوسط	
		هـ- تجيف في الجانبين	
		د- برنامج مستدقين	٨ درجات لكل نقطة درجتان
	ص٧٩	(٢) نواة الاريومة البيضة	
		م- بيضوية	
		ب- كبيرة	
	ص٧٧	(٣) اعشية حنية نقاوة	
		لاتسمح بعبور الذائبات بنفس معدل عبور المذيبات	
		ملاحظة / النقطة الاولى يكتفي الصحح بمعنيين فقط	

توقيع أعضاء اللجنة

Website: iraqedu.net Telegram: @SadsHelp Bot: @EDIRQBot

الاجوبة النموذجية للدراسة الاعدادية للعام الدراسي ٢٠٢٤ / ٢٠٢٥ الدور / الثالث

اسم المادة / الأحياء الفرع / العلمي - الاول

جواب السؤال (السادس) فرع (أ)

السؤال	الصفحة	الجواب النموذجي	الدرجة
	ص ١١٩	(٤) فرع المبيض في الحشرات أ- لا تحتوي على تخويلق ب- تحوي فرع المبيض على اسليفات المبوضات ج- تحوي خلايا مبيضية مرتبة بشكل سلاسل وخلايا مغذية فضلاً عن خلايا شيعية أخرى	
	ص ١١٤	(٥) مرحلة الحشرة الأولى في حشرة نباتات من ذوات الغلصمة يكون متعدد الخلايا ① وحركته الغادرى ⑤ أو الزحف يكون مطلاً ⑥ وقليقياً ⑦ مقلق	

ملاحظة / النقطة الرابعة يشمل المعنى

تواقيع أعضاء اللجنة