اللجنة الدائمة للامتحانات العامة
الدراسة : الإعدادية / العلمي
المادة : الفيزياء

جمهورية العراق - وزارة الـ
الدور الأول : (٢٠٢٥ / ٢٦)
الوقت : ثلاث ساعـ

اسم الطالب :
الرقم الامتحاني :

ملاحظة : الإجابة عن خمسة أسئلة فقط ، ولكل سؤال (٢٠) درجة .

س1 : A) ملف سلكي يتألف من (500) لفة دائرية ومساحة اللفة الواحدة ($20\ cm^2$) وضع بين قطبي مغناطيس ذي فيض مغناطيسي منتظم ، عندما كان الفيض المغناطيسي يصنع زاوية (60°) مع متجه مساحة اللفة الواحدة ، فإذا تناقصت كثافة الفيض المغناطيسي خلال اللفة بمعدل ($0.2\ T/s$) احسب : (١٠ درجا

1) معدل القوة الدافعة الكهربائية المحتثة على طرفي الملف .
2) المقدار الأعظم للتيار المتناسب في الملف اذا كانت مقاومته ($15\ \Omega$) .

B) ضع كلمة (صح) أمام العبارة الصحيحة وكلمة (خطأ) أمام العبارة غير الصحيحة مع تصحيح الخطأ دون تغيير ما تحته خط (لاثنين فقط) : (٤ درج

1) كثافة الإحتمالية لإيجاد الجسيم في نقطة ولحظة معينتين تتناسب طرديا مع $|\psi|$.
2) تمتاز المتسعة الإلكتروليتية بأنها لا تتحمل فرق جهد كهربائي عال .
3) تكون قدرة الضخ عالية عندما تعمل منظومة الليزر بنظام ثلاثة مستويات .

C) إذا علمت أنّ العلاقة التي تعطى فيها القدرة المتوسطة في دائرة تيار متناوب تحتوي مقاومة صرف هي العلاقة نفسها لحساب القدرة المتبددة في دائرة التيار المستمر خلال المقاومة نفسها وللمدة الزمنية نفسها ، إثبت رياضياً أنّ : $I_{eff} = 0.707\ I_m$ (٦ درجات

س2 : A) إشرح نشاطاً توضح فيه تداخل الموجات . (١٠ درجات

B) احسب الزخم الزاوي لإلكترون ذرة الهيدروجين عندما يكون في المدار الثاني (٥ درجات

C) ماذا يحصل ؟ ولماذا ؟ (أجب عن واحد فقط) (٥ درجات

1) للمجال الكهربائي المؤثر عند إدخال عازل غير قطبي مثل الزجاج بين صفيحتي متسعة مشحونة.
2) عند تأريض أحد أقطاب هوائي إرسال أو إستقبال الموجات الكهرومغناطيسية .

س3 : A) متسعتان ($C_1 = 4\mu F\ ,\ C_2 = 8\mu F$) مربوطتان مع بعضهما على التوازي وربطت مجموعتهما مع نضيدة فرق الجهد الكهربائي بين قطبيها ($50\ V$) ثم فصلت عنه . إذا أدخل لوح من مادة عازلة كهربائياً ثابت عزلها (K) بين صفيحتي المتسعة الثانية أصبحت شحنة تلك المتسعة ($480\ \mu C$) ، ما مقدار ؟

1) ثابت العزل (K) . 2) الطاقة المختزنة في المجال الكهربائي بين صفيحتي كل متسعة بعد إدخال العازل .

B) أجب عن (اثنين) ممّا يأتي :

1) ربط مصباح كهربائي على التوالي مع محث صرف ومصدراً للتيار المتناوب ، عند أيّ من الترددات الزاويه العالية أم الواطئة يكون المصباح أكثر توهجاً ؟ وعند أيّ منها يكون المصباح أقل توهجاً ؟ (بثبوت مقدار فولطية المصدر) ، وضّح ذلك .
2) متى يحدث الإنبعاث التلقائي الذي يحث على الإنبعاث المحفز (توليد الليزر) ؟ وضّح ذلك مع الرسم .
3) ما الفرق بين الباعث والجامع في الترانزستور من حيث ؟ a) جمع حاملات التيار أو إرسالها . b) ممانعة الملتقى .

س4 : A) دائرة تيار متناوب متوالية الربط تحتوي ملف معامل حثه الذاتي ($\frac{1}{2\pi}\ H$) ومقاومة صرف مقدارها ($30\ \Omega$) ومتسعة ذات سعة صرف رادتها السعوية ($80\ \Omega$) ومصدر للفولطية المتناوبة تردده ($50\ Hz$) وفرق الجهد بين طرفيه ($100\ V$) وكان تيار الدائرة ($2\ A$) ، فما مقدار ؟ 1) مقاومة الملف . 2) القدرة الحقيقية (المستهلكة) في الدائرة .
3) زاوية فرق الطور بين متجه الطور للفولطية الكلية ومتجه الطور للتيار ، ارسم مخطط الممانعة .

B) ما التفسير الفيزيائي ؟ (لاثنين فقط) :

1) تأثير كومبتن هو من إحدى الأدلة التي تؤكد السلوك الدقائقي للأشعة الكهرومغناطيسية .
2) المتسعة المشحونة والموضوعة في دائرة التيار المستمر تعد مفتاحاً مفتوحاً .
3) المادة العازلة لا تمتلك قابلية توصيل كهربائية .

س5 : A) سقط ضوء تردده ($0.6 \times 10^{15}\ Hz$) على سطح معدن فوجد أنّ جهد الإيقاف للإلكترونات الضوئية المنبعثة ذات الطاقة الحركية العظمى يساوي ($0.18\ V$) ، وعندما سقط ضوء تردده ($1.6 \times 10^{15}\ Hz$) على نفس سطح المعدن وجد أنّ جهد الإيقاف يساوي ($4.324\ V$) ، جد قيمة ثابت بلانك .

B) أجب عن (اثنين) ممّا يأتي :

1) كيف يمكن الحصول على حزمة ضوئية مستقطبة خطياً (إستوائياً أو كلياً) من حزمة ضوئية غير مستقطبة ؟ وما التقنيات المستعملة لهذا الغرض ؟
2) ميّز بين مولد التيار المستمر (DC) ومحرك التيار المستمر (DC) من حيث (مبدأ العمل والأجزاء التي يتركب منها).
3) ما نوع العلاقة بين ؟ a) شدة الأشعة السينية وعدد الفوتونات المنبعثة عند طول موجي معين .
b) الطول الموجي المرافق للفوتون وزخم الفوتون . (اكتب العلاقة الرياضية)

س6 : A) أولاً : ما الطول الموجي الذي تغطيه محطة إرسال AM إذاعية ترددها ($540\ KHz$) ؟
ثانياً : ما سرعة الإلكترون في أنبوبة الأشعة السينية ، طاقته الحركية ($48 \times 10^{-16}\ J$) ؟

B) أجب عن (اثنين) ممّا يأتي :

1) بمَ يتميّز المضخم (pnp) ذو القاعدة المشتركة (القاعدة المؤرضة) ؟ وضّح ذلك (مع كتابة العلاقات الرياضية) .
2) الرادار نظام الكتروني فماذا تعني كلمة رادار ؟ ولأي غرض يستعمل هذا النظام الإلكتروني ؟ وكيف يعمل ؟
3) كيف تستثمر ظاهرة الحث الكهرومغناطيسي في القيثارة الكهربائية ؟ وضّح ذلك .

استفد : $e = 1.6 \times 10^{-19}\ C$, $\cos 60^\circ = 0.5$, $\tan 37^\circ = 0.75$, $C = 3 \times 10^8 m/s$, $e = 9.11 \times 10^{-31} Kg$

@sadshelp



"شبكة تعليمية تهدف الى توفير جميع الاحتياجات الدراسية للطلاب في جميع انحاء العراق"

iraqedu.net @sadshelp

قناة تعليمية تقدم لكم

- الكتب المنهجية
- الملازم الدراسية
- الملازم الوزارية
- المراجعات المركزة
- الامتحانات - الاختبارات
- الملخصات
- الاخبار الموثوقة
- التحفيزات - النصائح
- نسخ الأسئلة الوزارية مع الأجوبة النموذجية

امسح الباركود من هنا
للانضمام الينا ليصلك
كل جديد

iraqedu.net @sadshelp

Website: iraqedu.net
Telegram: @SadsHelp
Bot: @EDIRQBot
@sadshelp



"شبكة تعليمية تهدف الى توفير جميع الاحتياجات الدراسية للطلاب في جميع انحاء العراق"

iraqedu.net
@sadshelp

بوت المساعد التعليمي

الكتب المنهجية - الملازم الدراسة - الملازم الوزارية - المراجعات المركزة
نسخ الاسئلة الوزارية مع الاجوبة النموذجية

Bot: @EDIRQBot

Website: iraqedu.net Telegram: @SadsHelp Bot: @EDIRQBot

١

الاجوبة النموذجية للدراسة الاعدادية للعام الدراسي ٢٠٢٥ / ٢٠٢٦

اسم المادة / الفيزياء الدور / الأول

الفرع / العلمي

جواب السؤال (الا ول) نوع (A)

السؤال	الصفحة	الجواب النموذجي	الدرجة
		$N = 500$ $A = 20\ cm^2 = 20\times10^{-4} = 2\times10^{-3}\ m^2$ $\theta = 60 \rightarrow \cos 60 = 0.5$ $\frac{\Delta B}{\Delta t} = -0.2\ T/s$	
		1) $\varepsilon_{ind} = -N\frac{\Delta \Phi_B}{\Delta t}$ $\varepsilon_{ind} = -NA\frac{\Delta B}{\Delta t}\cos\theta$ $\varepsilon_{ind} = -500\times2\times10^{-3}\times(-0.2)\times0.5$ $\varepsilon_{ind} = 1000\times10^{-3}\times0.2\times0.5$ $\varepsilon_{ind} = 10^{-1}\ V = 0.1\ V$	
		2) $R = 15\ \Omega$ $I_{in} = \frac{\varepsilon_{ind}}{R}$ $I_{in} = \frac{0.1}{15} = 0.0066\ A$	

ملاحظة:
- اذا لم يكتب الطالب I_{in} يعطى درجة كاملة
- اذا وجد الطالب I_{in} عندما تكون $\cos\theta$ وقدار صح وكيفية I_{max} يعطى درجة كاملة [5 درجات]

توقيع اعضاء اللجنة

Website: iraqedu.net Telegram: @SadsHelp Bot: @EDIRQBot

3

الاجوبة النموذجية للدراسة الاعدادية للعام الدراسي ٢٠٢٥ / ٢٠٢٦ الدور / الأول

اسم المادة / الفيزياء الفرع / العلمي

جواب السؤال (الدور الأول) فرع (C)

السؤال	الصفحة	الجواب النموذجي	الدرجة
حل ثالث	ص 98	$P_{dc} = P_{avr}$ $I_{dc}^2 \cdot R = \frac{I_m^2 \cdot R}{2}$ حذف المقاومة نقسم على $I_{dc}^2 = \frac{I_m^2}{2}$ يطلق على I_{dc} بالتيار المؤثر I_{eff} $I_{eff}^2 = \frac{I_m^2}{2}$ جذر طرفي المعادلة $I_{eff} = \frac{I_m}{\sqrt{2}}$ $\therefore 0.707 = \frac{1}{\sqrt{2}}$ $I_{eff} = \frac{I_m}{\sqrt{2}} = 0.707 I_m$	6 درجات

يتبع

توقيع اعضاء اللجنة

Website: iraqedu.net Telegram: @SadsHelp Bot: @EDIRQBot

4

الاجوبة النموذجية للدراسة الاعدادية للعام الدراسي ٢٠٢٥ / ٢٠٢٦

الدور / الأول

اسم المادة / الفيزياء

الفرع / العلمي

جواب السؤال (الاول) فرع (C)

السؤال	الصفحة	الجواب النموذجي	الدرجة
فصل ثاني	ص٩٨	(طريقة أخرى) ان العلاقة التي تعطينا القدرة المتوسطة في اللافتة تصلح لحساب قدرة التيار المستمر. $P_{av} = I_m^2 \cdot R$ $P_{av} = [I_m^2 \sin^2(\omega t)] \cdot R$ فتكون القدرة المتوسطة $P_{av} = \frac{1}{2} I_m^2 \cdot R$ حدث المقدار المتوسط للكمية $\sin^2(\omega t)$ (لدورة كاملة او عدد صحيح من الدورات يساوي $\frac{1}{2}$) اي ان $\sin^2(\omega t) = \frac{1}{2}$ $P_{dc} = P_{av}$ $I_{dc}^2 \cdot R = \frac{I_m^2 \cdot R}{2}$ بما ان المقاومة تنسا نحصل على $I_{dc}^2 = \frac{I_m^2}{2}$ يطلق على I_{dc} بالتيار المؤثر I_{eff} $I_{eff}^2 = \frac{I_m^2}{2}$ $I_{eff} = \frac{I_m}{\sqrt{2}}$ من ملاحظة الجدول $\frac{1}{\sqrt{2}} = 0.707$ $I_{eff} = \frac{I_m}{\sqrt{2}} = 0.707 I_m$	٦ درجات

توقيع اعضاء اللجنة

Website: iraqedu.net Telegram: @SadsHelp Bot: @EDIRQBot


6

الاجوبة النموذجية للدراسة الاعدادية للعام الدراسي ٢٠٢٥ / ٢٠٢٦ الدور / الأول

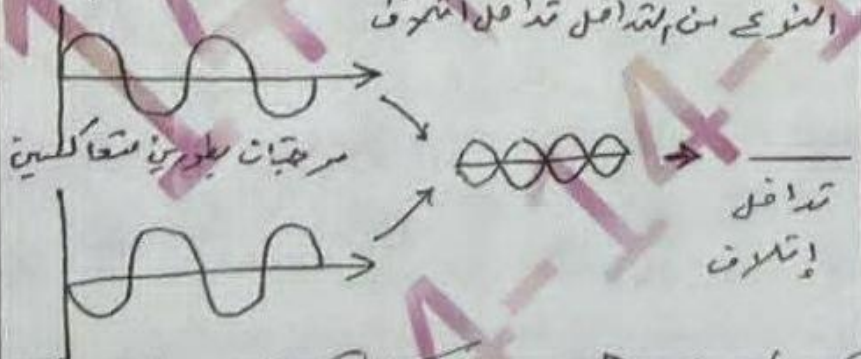
اسم المادة / الفيزياء الفرع / العلمي

جواب السؤال (الثاني) فرع (A)

السؤال	الصفحة	الجواب النموذجي	الدرجة
		والذي ينتج عن تراكب موجتين أو أكثر ذاتين وينتج عنهما تموية.	



٢- اذا كان التداخل ناتج عن اتحاد سلسلتين من الموجات بطولين متعاكستين وسعتين متساويتين وهو ناتج عن تراكب فيه اكثر موجة



توقيع أعضاء اللجنة

Website: iraqedu.net Telegram: @SadsHelp Bot: @EDIRQBot

(7)

الاجوبة النموذجية للدراسة الاعدادية للعام الدراسي ٢٠١٥ / ٢٠١٦ الدور / الاول

اسم المادة / الفيزياء الفرع / العلمي

جواب السؤال (الثاني) فرع (B)

السؤال	الصفحة	الجواب النموذجي	الدرجة
س1 ف B	ص54 حسنا	$L = n\left(\frac{h}{2\pi}\right)$ $L = 2\left(\frac{6.63 \times 10^{-34}}{2 \times 3.14}\right)$ $L = 2.11 \times 10^{-34}\ Kg \cdot \frac{m^2}{s}$ $L = 2.11 \times 10^{-34}\ J \cdot s$	5 درجات

توقيع اعضاء اللجنة

Website: iraqedu.net Telegram: @SadsHelp Bot: @EDIRQBot

٨

الاجوبة النموذجية للدراسة الاعدادية للعام الدراسي ٢٠٢٥ / ٢٠٢١ الدور / الأول

اسم المادة / الفيزياء الفرع / العلمي

جواب السؤال (الثاني) فرع (ج)

السوال	الصفحة	الجواب النموذجي	الدرجة
	ص ١٥ من ١٦ من قسم	① عند ادخال العازل فيو القطبي بين صفيحي المكثف المشحون سوف يعمل المجال الكهربائي على ازاحة شحنتين السطحيتين الموجبة والسالبة ازاحة قليلة على ما يؤدي الى تحول الجزيئ الى دايبول كهربائي ويصبح يعادل مستطيل ويتولد مجال كهربائي E_d داخل العازل معاكس تماما لتاثير المجال الكهربائي الاصلي E وهذا يؤدي الى تقليلة وحسب العلاقة $E_k = E - E_d$	الاجابة عن نقطة واحدة ٥ درجات لكل درجتين
		② سوف تدخل الهوائي بطول ربع موجة ونعمل الارض على تكوين صورة بجهد يقطب بالطول نفسة وبذلك يتكون قطب أخر في الارض بطول ربع موجة لكمل حوالي الهوائي لنصف موجة	
		ملاحظة / اذا اكتفت اجابة الطالب (بيع الهوائي ربع موجة) يعطى ٢ درجة	
		توقيع اعضاء اللجنة	

Website: iraqedu.net Telegram: @SadsHelp Bot: @EDIRQBot

10

الدور / الأول

اسم المادة / الفيزياء

الفرع / العلمي

السؤال	الصفحة	الجواب النموذجي	الدرجة

توقيع أعضاء اللجنة

Website: iraqedu.net Telegram: @SadsHelp Bot: @EDIRQBot

(11)

الاجوبة النموذجية للدراسة الاعدادية للعام الدراسي ٢٠٢٥ / ٢٠٢٦ الدور / الأول

اسم المادة / الفيزياء الفرع / العلمي

جواب السؤال (الثاني) فرع (العلمي)

السؤال	الصفحة	الجواب النموذجي	الدرجة
٥			
		الباحث / الباحث / الباحث	
		يرسل (يعطي) عاملون الشحنة (التيار) الى الجانب خول القاعده	يجمع تلك العاملات خول القاعده
		(الباحث - القاعده) صانعة الدخول صغيره بسبب الربط الساعي	(الباحث - القاعده) صانعة الخروج كبيره بسبب الربط التفاعلي

ملاحظة: (النقطة (٥) علمي)

١ - اذا ذكر الطالب نقطة واحدة من نقاط المقارنة يعطى درجتان . واذا ذكر نقطتين يعطى ثلاث درجات واذا ذكر ثلاث نقاط يعطى الاربع درجات .

توقيع اعضاء اللجنة

Website: iraqedu.net Telegram: @SadsHelp Bot: @EDIRQBot

12

الاجوبة النموذجية للدراسة الاعدادية للعام الدراسي ٢٠٢٥ / ٢٠٢٦ الدور / الأول

اسم المادة / الفيزياء الفرع / العلمي

جواب السؤال (الرابع) نوع (A)

السؤال	الصفحة	الجواب النموذجي	الدرجة

1) $Z = \frac{V_T}{I_T} = \frac{100}{2} = 50\,\Omega$

$X_L = 2\pi fL = 2\pi(50)\frac{1}{2\pi} = 50\,\Omega$

$Z^2 = R_{eq}^2 + (X_L - X_C)^2$

$(50)^2 = R_{eq}^2 + (50-80)^2$

$2500 = R_{eq}^2 + (-30)^2$

$2500 = R_{eq}^2 + 900 \Rightarrow R_{eq}^2 = 2500 - 900$


$R_{eq}^2 = 1600 \longrightarrow R_{eq} = 40\,\Omega$

$R_L = R_{eq} - R \longrightarrow R_L = 40 - 30 = \boxed{10\,\Omega}$

2) $P_{real} = I^2 \cdot R_{eq} = 2^2(40) = 4 \times 40 = 160$ watt

3) $\tan\Phi = \frac{X_L - X_C}{R_{eq}} = \frac{50-80}{40} = \frac{-30}{40} = -\frac{3}{4} = -0.75$

$\therefore \Phi = -37°$



درجة واحدة للرسم

ملاحظة / كانت الاجابة بالقدرة من العلاقة: $P_R = \frac{V_R^2}{R_{eq}}$

$V_R = I \cdot R_{eq} = 2 \times 40 = 80$ Volt

$P_r = \frac{V_R^2}{R} = \frac{(80)^2}{40} = 160$ watt

توقيع اعضاء اللجنة

Website: iraqedu.net Telegram: @SadsHelp Bot: @EDIRQBot

13

الاجوبة النموذجية للدراسة الاعدادية للعام الدراسي ٢٠٢٥ / ٢٠٢٦ الدور / الأول

اسم المادة / الفيزياء الفرع / العلمي

جواب السؤال (الرابع) فرع (B)

السؤال	الصفحة	الجواب النموذجي	الدرجة
		اجب عن فرعين (لكل فرع 5 درجة)	
8 فص 1	239 ص	1) فسر كومبتن ان الفوتون الساقط على الهدف من الكترون يصطدم مع الكترون حر من الكترونات ذرات مادة الهدف فاقداً مقدار من طاقته ويكتسب هذا الالكترون بعد التصادم مقدار من الطاقة يمكن طاقة حركية تمكنه من الافلات من مادة الهدف اي ان الفوتون يسلك سلوك الجسيمات .	½ درجة
فص 1	31 ص	2) الكمية عند شحنها بكامل شحنتها يكون جهدها صفر حيث منها مساوياً لجهد القطب المتصل بالبطارية وهذا يعني ان فرق جهد البطارية يساوي فرق جهد الكمية وهذا يجعل فرق الجهد بين طرفي المقاومة في الدائرة = صفر وعندئذ يكون تيار الدائرة يساوي صفر .	½ درجة
7 فص 1	206 ص	3) كأن ثغرة الطاقة المحظورة في المواد العازلة واسعة نسبياً (5eV أو اكثر) لذا فان الكترونات حزمة التكافؤ لا تتمكن من عبور ثغرة الطاقة المحظورة والانتقال الى حزمة التوصيل عندما تكون الطاقة الجهزة اقل من ثغرة الطاقة المحظورة . ملاحظة : اذا كتب الطالب [تكون الكترونات التكافؤ فيها مرتبطة ارتباط وثيق بالنواة والمقاومة الكهربائية النوعية كبيرة] (يعطى 3 درجات)	½ درجة
		توقيع اعضاء اللجنة	

Website: iraqedu.net Telegram: @SadsHelp Bot: @EDIRQBot

16

الاجوبة النموذجية للدراسة الاعدادية للعام الدراسي ٢٠٢٥ / ٢٠٢٦ الدور / الأول

اسم المادة / الفيزياء الفرع / العلمي

جواب السؤال (الخاسي) فرع (B)

السؤال	الصفحة	الجواب النموذجي	الدرجة
	237 ص فقرة 8	٢- ان شدة الاضاءة السينية تتناسب a- العلاقة طرديا مع عدد الفوتونات الساقطة عند طول موجي معين	
	183 ص فقرة 6	b- العلاقة الموجي المرافق للفوتون يتناسب عكسيا مع زخم الفوتون حسب العلاقة : $\lambda = \frac{h}{p}$ دائما $\lambda = \frac{h}{mc}$	5 درجة
		ملاحظة/ اذا ذكر الطالب احدى العلاقتين يعطى درجة كاملة	
		ملاحظة/ اذا كانت احدى الفقرتين خاطئة (a أو b) يعطى الطالب 3 درجات .	
		توقيع اعضاء اللجنة	

14-14-14

Website: iraqedu.net Telegram: @SadsHelp Bot: @EDIRQBot

17

الاجوبة النموذجية للدراسة الاعدادية للعام الدراسي ٢٠٢٥ / ٢٠٢٦ الدور / الأول

اسم المادة / الفيزياء الفرع / العلمي

جواب السؤال (السادس) فرع (A)

السؤال	الصفحة	الجواب النموذجي	الدرجة
س ٢ الفصل الرابع 150		أولاً: $f = 540\ KHz$ $f = 540 \times 10^3\ Hz$ $\lambda = \frac{c}{f} = \frac{3\times10^8}{540\times10^3} \cong 0.0555\times10^4\ m$ $\lambda \cong 555\ m$	5 درجات
س ٥ الفصل الثامن الكتاب ص 266		ثانياً: $KE_{max} = \frac{1}{2}mv^2$ $48\times10^{-16} = \frac{1}{2}(9.11\times10^{-31})v^2$ $v^2 = \frac{2\times48\times10^{-16}}{9.11\times10^{-31}} = 0.105\times10^{17}$ $v = 10.24\times10^7\ m/sec.$ ثانياً: طريقة اخرى للحل: $v = \sqrt{\frac{2KE_m}{m}}$ ملاحظة / لا يحاسب الطالب على الناتج النهائي.	5 درجات
توقيع اعضاء اللجنة			/

Website: iraqedu.net Telegram: @SadsHelp Bot: @EDIRQBot

18

الاجوبة النموذجية للدراسة الاعدادية للعام الدراسي ٢٠٢٥ / ٢٠٢٦ الدور / الأول

اسم المادة / الفيزياء الفرع / العلمي

جواب السؤال (السادس) فرع (B)

السؤال	الصفحة	الجواب النموذجي	الدرجة
السؤال الثاني	١	الاجابة عن اثنين فقط (لكل نقطة 5 درجات)	

① دائرة الدخول : (دائرة الباعث - قاعدة) مقاومتها صغيرة جداً لان ملتقى الباعث قاعدة يكون منحازاً بالاتجاه الامامي . ودائرة الخروج : (دائرة المجامع - قاعدة) تكون مقاومتها كبيرة جداً لان ملتقى (المجامع - قاعدة) يكون منحازاً بالاتجاه العكسي .

② مولطية الانحياز : دائرة الدخول صغيرة جداً مثل مولطية انحياز دائرة الخروج كبيرة جداً فتكون ربح المولطية كبيراً .

ربح المولطية $A_V = \frac{V_{out}}{V_{in}}$ مولطية الخروج / مولطية الدخول

③ ربح التيار : أقل من الواحد الصحيح .

ربح التيار $\alpha = \frac{I_C}{I_E}$ تيار الخروج / تيار الدخول

④ ربح القدرة تكون متوسطاً :

ربح القدرة $G_P = \frac{P_{out}}{P_{in}}$ قدرة الخروج / قدرة الدخول ، $G_P = A_V \cdot \alpha$ ذات

⑤ الاشارة الخارجة تكون بالطور نفسه مع الاشارة الداخلة . لان تيار المجامع يتغير باتجاه تيار الباعث نفسه

ملاحظة : لا يحاسب الطالب اذا لم يذكر السبب

توقيع أعضاء اللجنة

لكل نقطة

Website: iraqedu.net Telegram: @SadsHelp Bot: @EDIRQBot

(19)

الاجوبة النموذجية للدراسة الاعدادية للعام الدراسي ٢٠٢٥ / ٢٠٢٦ الدور / الأول

اسم المادة / الفيزياء الفرع / العلمي

جواب السؤال (السادس) فرع (B)

السؤال	الصفحة	الجواب النموذجي	الدرجة
الفصل الاول ص 146 الكتاب	2	الغرض من الرادار : الكشف عن اجسام متحركة او ثابتة وتحديد مواقعها . العمل : بوساطة ارسال موجات راديوية باتجاه الهدف واستقبال الموجات التي تنعكس عنه ويدل الزمن الذي تستغرقه الموجات في ذهابها وايابها بعد انعكاسها على مدى الهدف وكم يبعد نفسه عن الاتجاه الذي تعود منه الموجات المنعكسة يدل على موقع الهدف .	5 درجات
الفصل الثاني ص 83 الكتاب	3	توضع ملفات بداخلها ساق مغناطيسية في مواضع مختلفة تحت الاوتار المعدنية للقيثارة الكهربائية وعندما تهتز هذه الاوتار تستحث تيار كهربائي متناوب تردده يساوي تردد الاوتار ثم يوصل الى المضخم .	5 درجات

تواقيع اعضاء اللجنة